2026 年多省联考笔试预测卷一

上岸村·不辜负每一次相遇

第一部分　政治理论

根据题目要求，在四个选项中选出一个最恰当的答案。

请开始答题：

1.习近平指出，中国式现代化是中国共产党领导的社会主义现代化，既有各国现代化的共同特征，更有基于自己国情的中国特色。下列关于“中国式现代化”，说法正确的有几项？

①概括提出并深入阐述中国式现代化理论，是党的十八大的一个重大理论创新，是科学社会主义的最新重大成果

②党的领导直接关系中国式现代化的根本方向、前途命运、最终成败

③中国式现代化走得通、行得稳，是强国建设、民族复兴的唯一正确道路

④发展全过程人民民主是中国式现代化的本质要求

⑤物质文明和精神文明相协调是中国式现代化的本质特征，也是区别于西方现代化的显著标志

A.5 项　　B.4 项　　C.3 项　　D.2 项

2.坚持党的全面领导与坚持以人民为中心是内在统一的。只有坚持党的全面领导，才能在改革开放和中国式现代化进程中始终坚持以人民为中心。下列说法正确的有几项？

①中国共产党领导是中国最大的国情，是中国特色社会主义最本质的特征

②党的领导制度是我国根本政治制度，是中国特色社会主义制度体系的核心

③人民立场是中国共产党的根本政治立场，是党区别于其他政党的显著标志

④党的最大政治优势是密切联系群众，党执政后的最大危险是脱离群众

⑤要把经济发展作为增进民生福祉的根本目的

A.①②③④　　B.②③④⑤　　C.①②⑤　　D.①③④

3.习近平在 2026 年新年贺词中指出，过去一年我们开展深入贯彻中央八项规定精神学习教育，徙木立信从严管党治党，去腐生肌推进自我革命，党风政风持续向好。要砥砺初心使命，持之以恒、久久为功，继续回答好延安“窑洞之问”，书写无愧于人民的时代答卷。下列相关说法，正确的有几项？

①中央八项规定是我们党改进作风的第一步，是共产党人应该做到的基本要求

②徙木立信最早出自《春秋·商君列传》

上岸村·不辜负每一次相遇

③自我革命是回答延安“窑洞之问”的首个答案，体现了内因是事物发展的根据

④加强作风建设必须紧扣保持党同人民群众血肉联系这个关键

⑤让人民作为阅卷人，是我党坚持历史唯物主义的重要体现

A.2 项　　B.3 项　　C.4 项　　D.5 项

4.2025 年 11 月，第 21 期《求是》杂志发表习近平重要文章《关于〈中共中央关于制定国民经济和社会发展第十五个五年规划的建议〉的说明》。文章指出，《建议》稿从“十五五”的基本定位出发谋划“十五五”时期发展，既同“十四五”规划提出的理念和思路保持连续性，又准确把握未来 5 年我国发展大势，提出符合实际、具有前瞻性的总体思路、重大原则、主要目标、战略任务。材料体现的哲学原理，与下列选项中的哪一项最不同？

A.对待古今中外文化要取其精华，弃其糟粕

B.谋划“十五五”规划，要分领域确定目标任务、提出思路举措

C.要坚持守正创新，推动中华优秀传统文化实现创造性转化、创新性发展

D.传承中华文化，要辩证取舍、推陈出新，摒弃消极因素，继承积极思想

5.2025 年 12 月，中央经济工作会议在京举行。下列关于 2026 年经济工作的相关要求，说法正确的有几项？

①要发挥存量政策和增量政策集成效应，加大逆周期和跨周期调节力度

②要实施更加积极的财政政策，缩减财政赤字、债务总规模和支出总量

③要实施适度宽松的货币政策，把物价合理下降作为货币政策重要考量

④要引导金融机构加力支持扩大内需、科技创新、中小微企业等重点领域

A.1 项　　B.2 项　　C.3 项　　D.4 项

6.2026 年中央一号文件《关于锚定农业农村现代化 扎实推进乡村全面振兴的意见》指出，要实施常态化精准帮扶。下列表述正确的是：

①稳步提升“三保障”和饮水安全保障水平，守牢不发生规模性返贫致贫底线

②强化社会救助帮扶，发挥开发式帮扶兜底保障作用，推动帮扶政策协同集成

③适当提高中央财政常态化帮扶资金规模及省市两级投入资金规模

④扎实做好乡村两级常态化监测，健全精准识别和快速响应机制

⑤做好防止返贫致贫对象精准帮扶和静态调整

A.①③④　　B.①②⑤　　C.②③④　　D.③④⑤

7.2026 年 1 月，中国共产党第二十届中央纪律检查委员会第五次全体会议召开。下列相关说法，正确的有几项？

①党的自我革命重在授权，把权力关进制度笼子是全面从严治党的重要任务

②深化巡察巡视上下联动，加强对省区市巡察、对村巡视工作指导督导

③持续深化群众身边不正之风和腐败问题集中整治，推动省级主战场持续深化整治工作，发挥群众监督作用

④把权力关进制度笼子，既要不断完善制度规定，使制度密而不繁、有效管用，又要着力提高制度执行力，增强刚性约束

⑤腐败是党和国家事业发展进程中的拦路虎、绊脚石，反腐败是一场输不起也决不能输的重大斗争

A.2 项　　B.3 项　　C.4 项　　D.5 项

8.全球治理倡议是继全球发展倡议、全球安全倡议、全球文明倡议后，中国提出的又一项重大倡议。下列关于四大倡议的对应表述，正确的是：

A.全球发展倡议——核心是“共同、综合、合作、可持续”，重点解决地区冲突、恐怖主义等安全难题

B.全球安全倡议——以“共商共建共享”为核心理念，推动全球治理体系改革，提升发展中国家话语权

C.全球文明倡议——倡导“平等、互鉴、对话、包容”，反对文明优越论，促进不同文明交流互鉴

D.全球治理倡议——聚焦“消除贫困、缩小差距”，推动落实联合国 2030 年可持续发展议程，实现共同富裕

9.2025 年 11 月，中共中央政治局就加强网络生态治理进行第二十三次集体学习。下列说法正确的有几项？

①抓网络生态治理必须坚持党的领导、坚持人民至上、坚持守正创新、坚持法治护航、坚持系统观念

②各级各部门要强化管网治网的政治责任和领导责任，不断提高运用网络了解民意、开展工作的能力

③自媒体和大众传媒要发挥网络优质内容供给的示范引领作用

④要完善网上思想道德教育统一化、标准化实施机制，培育自尊自信、理性平和、积极向上的网络社会心态

⑤要完善分级分类的安全监管机制，筑牢网络安全和数据安全防线

A.2 项　　B.3 项　　C.4 项　　D.5 项

10.2025 年 10 月，《关于制定国民经济和社会发展第十五个五年规划的建议》发布。下列关于“十五五”时期经济社会发展的主要目标，说法正确的有几项？

①居民消费率明显提高，出口拉动经济增长主动力作用持续增强

上岸村·不辜负每一次相遇

上岸村·不辜负每一次相遇

②教育科技人才一体发展格局基本形成，基础研究和原始创新能力显著增强

③居民收入增长和经济增长同步、劳动报酬提高和劳动生产率提高同步，中等收入群体持续扩大

④绿色生产生活方式基本形成，碳中和目标如期实现，清洁低碳安全高效的新型能源体系初步建成

A.1 项　　B.2 项　　C.3 项　　D.4 项

11.2025 年 11 月，习近平听取海南自由贸易港建设工作汇报并发表讲话。关于海南自贸港全岛封关运作，下列说法正确的是：

A.封关后中国内地游客进出海南需携带通行证，海南脱离统一税收征管体系

B.封关运作的核心内涵是“一线放开、二线管住”，“一线”指海南与内地之间，“二线”指海南与境外其他国家和地区之间

C.封关后，进口商品实行零关税政策，所有进入海南的境外商品无需缴纳关税

D.封关是中国扩大高水平对外开放的重要举措，有利于打造开放型经济新高地

12.2025 年 6 月，中办、国办印发《关于进一步保障和改善民生着力解决群众急难愁盼的意见》。下列相关举措，说法正确的是：

①推动高等教育提质扩容，新增高等教育资源适度向东部人口大省倾斜

②以失能老年人照护为重点，提高养老服务机构医养结合服务能力

③支持普惠养老服务增量资源向养老机构倾斜

④以社区为主场景主阵地，加强各类便民服务资源统筹整合

A.①②　　B.②④　　C.①④　　D.③④

13.2025 年 8 月，《中共中央办公厅 国务院办公厅关于推进绿色低碳转型加强全国碳市场建设的意见》发布。下列相关说法，正确的有几项？

①坚持碳市场作为控制温室气体排放政策工具的基本定位

②大力新建地方或区域碳排放权交易市场，同时建立定期评估和退出机制

③积极推动核证自愿减排量应用，各地民营企业要发挥表率作用

④努力实现碳排放资源配置效率最优化和效益最大化，推动传统产业深度转型

A.4 项　　B.3 项　　C.2 项　　D.1 项

14.2025 年 5 月，中共中央办公厅、国务院办公厅印发《关于持续推进城市更新行动的意见》。下列说法正确的有几项？

①坚持以人民为中心，建设好房子、好小区、好社区、好城区

②坚持系统观念，尊重城市发展规律，树立全周期管理意识

③坚持规划引领，强化专项规划基础作用，增强国土空间规划支撑作用

④坚持利用第一、应保尽保、以用促保，在城市更新中加强文化遗产保护

⑤坚持实事求是、因地制宜，分类建设符合城市特色的“形象工程”

A.2 项　　B.3 项　　C.4 项　　D.5 项

15.2025 年 10 月，《关于制定国民经济和社会发展第十五个五年规划的建议》发布。《建议》指出，要优化区域经济布局，促进区域协调发展。下列说法正确的是：

A.巩固提升京津冀、长三角、成渝双城经济圈高质量发展动力源作用

B.加大标准化政策支持力度，促进革命老区、民族地区等振兴发展

C.调整城市化地区、农产品生产区、生态功能区格局，以适应新的发展形势

D.赋予省级政府统筹建设用地更多自主权，探索实施建设用地总量按规划期管控模式

※※※第一部分结束，请继续做第二部分！※※※

上岸村·不辜负每一次相遇

上岸村·不辜负每一次相遇

第二部分　常识判断

根据题目要求，在四个选项中选出一个最恰当的答案。

请开始答题：

16.Z 省 H 市某电子商务公司因涉嫌采用虚假或使人误解的价格手段，诱骗消费者与之进行交易，被 H 市市场监督管理局立案调查，并拟对该公司的违法行为处以 50 万元罚款。在作出行政处罚决定前，市场监督管理局告知该公司依法享有要求听证的权利。如该公司要求听证，则下列说法中，正确的是：

A.该公司应当自收到告知后 5 日内向行政机关提出听证要求

B.市场监督管理局应在听证前 5 日通知当事人举行听证的时间、地点

C.该公司应承担组织听证的费用

D.听证主持人由该公司选择一名非本案调查人员主持

17.下列构成盗窃罪的是：

A.张某无意间将李某埋藏在屋外树下的 10 万元现金挖出，并据为己有，拒不交出

B.胡某在任邮政局营业员期间盗取储蓄的存折密码，然后冒充储户在取款凭单上签字，提取现金 40 余万元

C.张某在给客户维护网络的过程中，获取该客户的网络账户和密码，后张某和朋友利用该账户的密码在网吧玩网游共消费 3000 余元

D.赵某意欲窃走丁某的手提包，在其刚拿到手提包准备离开时被丁某发现，丁某当场抓住手提包，但因力气太小，最终还是被赵某拿走

18.赵某未经批准擅自在人行横道上搭建了小库房，甲县执法局对其作出罚款 200 元的决定，赵某不服向甲县政府申请行政复议，甲县政府经调解后结案。下列说法不正确的是：

A.甲县政府应当制作行政复议调解书

B.甲县政府制作的行政复议调解书应当加盖甲县政府印章

C.赵某在调解书生效前反悔，甲县政府应当依法作出行政复议决定

D.甲县执法局作为政府部门，在调解书生效前不得反悔

19.2025 年 5 月，中国人民银行宣布，降准 0.5 个百分点，向市场提供长期流动性约 1 万亿元，并降低政策利率 0.1 个百分点。央行降准降息后，下列传导路径正确的是：

A.银行可贷资金减少→企业融资难度上升→固定资产投资减少

B.存款准备金率降低→市场货币供应量减少→企业融资成本上升

C.贷款利率下降→企业利息支出减少→扩大生产规模

D.存款利率下降→居民储蓄意愿增强→银行资金来源增加

20.习近平指出，实施扩大内需战略，是保持我国经济长期持续健康发展的需要，也是满足人民日益增长的美好生活的需要。下列关于内需的表述，不正确的是：

A.内需主要由消费需求和投资需求构成，其中消费需求是扩大内需的战略基点，对经济增长发挥基础性作用

B.制约我国内需持续扩大的结构性矛盾，既包括需求侧的居民可支配收入不足、消费预期偏弱，也包括供给侧的产品质量不高、供需匹配度不足

C.扩大内需的核心是扩大固定资产投资，只要加大基础设施投资规模，就能实现内需持续扩容提质

D.宏观调控中，减税降费、降准降息等举措均可通过提升消费和投资活力，刺激内需增长

21.2025 年 5 月，习近平在河南洛阳龙门石窟考察时强调："要把这些中华文化瑰宝保护好、传承好、传播好。"关于中国四大石窟，下列说法不正确的是：

A.麦积山石窟因山体形似麦垛得名，以精美的泥塑艺术著称，有"东方雕塑馆"之称

B.莫高窟又称千佛洞，兼具建筑、彩塑、壁画三大艺术形式，是四大石窟中规模最大的石窟

C.龙门石窟被誉为"中国石窟艺术的巅峰之作"，"卢舍那大佛"是隋代造像艺术的代表

D.云冈石窟以气势雄浑的大型石雕为特色，其中"昙曜五窟"是北魏皇室为纪念先祖开凿的代表性洞窟

22.2025 年 4 月，《加快建设农业强国规划（2024—2035 年）》印发。下列关于我国古代农业发展成就，说法错误的是：

A.明朝徐光启的《农政全书》重点记载了甘薯、玉米的推广种植，并引入西方水利技术

B.北魏贾思勰所著《齐民要术》系统总结了黄河流域农业生产经验，是我国现存最早、最完整的农书

C.唐朝引进占城稻并推广复种制，江南地区出现稻麦轮作，形成"苏湖熟，天下足"的格局

D.元朝王祯编撰《农书》，全面总结南北农业技术，并首创"授时图"指导农事安排

23.2025 年 3 月，习近平在贵州考察时发表讲话指出，党中央决定在全党开展深入贯彻中央八项规定精神学习教育，这是今年党建工作的重点任务。中央八

上岸村·不辜负每一次相遇

上岸村·不辜负每一次相遇

项规定精神和延安整风运动在精神内核上一脉相承。下列关于延安整风运动，说法错误的是：

A.1942 年，毛泽东先后发表《整顿党的作风》《反对党八股》两篇演说，标志着全党普遍整风的开始

B.整风运动的主要内容是反对主观主义以整顿学风、反对宗派主义以整顿党风、反对党八股以整顿文风

C.延安整风的基本方针是“团结—批评—团结”，实践方法是“惩前毖后，治病救人”

D.延安整风是第一次全党范围内的马克思主义的思想教育运动，开创了党内集中教育活动的先河

24.南水北调中线工程入选“2025 全球十大工程成就”。下列关于南水北调工程，说法错误的是：

A.工程主要解决我国华北、西北地区水资源短缺问题

B.工程规划东、中、西三条线路，连接长江、黄河、淮河、海河，构成“四横三纵”的总体布局

C.中线工程的核心水源区是丹江口水库，主要向河南、河北、北京、天津供水

D.东线工程利用京杭大运河及其平行河道输水，全程均采用自流方式

25.2025 年 7 月，我国西夏陵列入《世界遗产名录》。关于我国的世界遗产，下列说法错误的是：

A.西夏陵是由羌族建立的西夏王朝的陵墓遗址群，有“东方金字塔”之称

B.福建土楼以圆形或方形的夯土建筑群为特色，体现了客家人的聚族而居文化

C.平遥古城位于山西晋中，是我国现存最完整的明清时期汉族古城

D.开平碉楼是集居住、防卫、防涝于一体的特殊建筑，是华侨文化的代表

26.2025 年 11 月，《碳达峰碳中和的中国行动》白皮书发布。下列有关二氧化碳的说法，正确的是：

A.二氧化碳是无色无味的气体，密度比空气小，可用于扑灭电器设备、精密仪器等场所的初期火灾

B.二氧化碳是典型的酸性氧化物，可与水反应生成碳酸，是造成酸雨的主要气体

C.植物通过光合作用吸收二氧化碳合成有机物，因此二氧化碳浓度越高对植物生长越有利

D.固态二氧化碳俗称“干冰”，常压下易升华吸热，广泛用于人工降雨和食品冷藏等领域

27.2025 年，我国相继成功发射神舟二十号、二十一号、二十二号载人飞船。下列相关说法，正确的是：

A.神舟二十号是我国航天史上自神舟五号以来首次以无人状态返回的飞船

B.神舟十号任务起，我国载人飞船发射采用“打一备一”的滚动备份模式

C.神舟二十一号载人飞行任务是我国载人航天工程第一次应急发射任务

D.神舟二十号载人飞行任务创造了中国航天员单个乘组在轨驻留时间最长纪录

28.2025 年 10 月，在中国大洋 92 航次第一航段中，“蛟龙”号载人潜水器实现我国首次北极冰区载人深潜，并在北极海域成功完成了 10 余次载人深潜。下列关于我国潜水器，对应错误的是：

A.“海斗”号——中国首台达到万米作业深度的无人潜水器

B.“蛟龙”号——中国首台突破 7000 米深度的载人潜水器

C.“奋斗者”号——中国自主研发的万米载人潜水器

D.“梦想”号——中国 6000 米级深海无人遥控潜水器

29.2025 年 12 月，“九天”无人机在陕西蒲城圆满完成首飞任务。下列各项说法错误的是：

A.“九天”无人机是我国自主研发的高空长航时太阳能无人机，主要用于气象探测与环境监测

B.“九天”无人机采用超轻复合材料与高效太阳能电池，可在平流层持续飞行数月，具有“准卫星”功能

C.“九天”无人机目前已完成多次跨洲际载货试飞，并投入国际商业物流运输市场

D.“九天”无人机的设计注重低能耗与强抗风能力，能为应急通信、国土资源勘测等提供灵活的低成本解决方案

30.2025 年 8 月，工业和信息化部等部门联合印发《关于推动脑机接口产业创新发展的实施意见》，这是国家层面首次系统性规划脑机接口产业发展的顶层设计文件。下列关于脑机接口的说法，不正确的是：

A.其核心是人脑与外部设备直接信息交互，不依赖神经和肌肉

B.可帮助瘫痪患者恢复运动功能，帮助视障、听障人士感知外界信息

C.分为侵入式、半侵入式、非侵入式三种主要类型

D.现阶段已能实现直接读取并完整复制人类思维与记忆

※※※第二部分结束，请继续做第三部分！※※※

上岸村·不辜负每一次相遇

上岸村·不辜负每一次相遇

第三部分　言语理解与表达

31.我国能源禀赋偏煤，转型有困难的一面，但也恰恰可以从低碳转型中获益更多。在转型过程中，我们要立足国情，坚持稳中求进、逐步实现，不能脱离实际、_____。要立足以煤为主的基本国情，抓好煤炭清洁高效利用，增加新能源消纳能力，推动煤炭和新能源优化组合。

填入画横线部分最恰当的一项是：

A.纸上谈兵　　B.急于求成

C.缘木求鱼　　D.贪大求全

32.当前社交媒体成为年轻人活跃的网络平台，“朋友圈”里的分享、转发、评论成为了观点碰撞、认识形成的重要方式。讲好中国故事，在用好微信等平台之外，还可以利用一些境外流行的社交产品，针对不同人群的阅读习惯，_____做好用户自主传播。

填入画横线部分最恰当的一项是：

A.统筹兼顾　　B.对症下药

C.细致入微　　D.有的放矢

33.任何形态的文化都是一定民族文化传统和价值的集中体现，具有鲜明个性特征；同时，文化又具有极强烈的交流性和_____。中国特色社会主义文化，就是坚持个性和共性有机统一的现代文化形态。

填入画横线部分最恰当的一项是：

A.变通性　　B.通用性

C.交融性　　D.可塑性

34.随着人工智能、大数据、5G 等技术的飞速发展，世界已经进入智能化时代。智能化技术本身也已成为提高部队战斗力的_____，在更多军事领域得以深入发展和运用。在新技术手段条件下，战场迷雾被进一步驱散，对拥有数据优势的一方来说，往往意味着战场环境趋于_____，情报获取愈加全面，在情报优势的支撑下，不论是进攻还是防守都将拥有更多战争主动权。

填入画横线部分最恰当的一项是：

A.压舱石　明朗　　B.加速器　公开

C.助推器　透明　　D.杀手锏　清晰

35.进入 21 世纪以来，西方史学呈现出“转向”与“回归”_____的现象。一方面，各种“转向”交替显现，如对当前史学影响甚巨的全球转向、空间转向和记忆转向，以及近年来方兴未艾的情感转向、数字转向、动物转向等。另一方面，各种“回归”也接踵而至，如长时段的回归、普遍史的回归、观念史的回归、革命史的回归、政治史的回归等，_____。

填入画横线部分最恰当的一项是：

A.此消彼长　不胜枚举　　B.蔚然成风　屡见不鲜

C.层出迭见　不一而足　　D.齐头并进　比比皆是

36.商业化可谓双刃剑，古镇游之所以_____，既得益于古镇自身的历史文化魅力，也有赖于对古镇的商业开发。如果不靠商业化，很多古镇依然在沉睡中，不说造福当地居民，可能就连自身的生存与传承都会成为问题，最终恐怕会随着时间的流逝而_____。

填入画横线部分最恰当的一项是：

A.历久弥新　遗忘　　B.长盛不衰　消失

C.大行其道　式微　　D.深得人心　衰亡

37.制度的生命力在于执行。好制度要执行好、维护好，才能发挥出好效能、展现出优越性。再好的制度，如果不抓落实，只是写在纸上、贴在墙上、锁在抽屉里，就会_____，其效果也会_____。

填入画横线部分最恰当的一项是：

A.束之高阁　适得其反　　B.名存实亡　事与愿违

C.形同虚设　大打折扣　　D.存而不论　差强人意

38.消费是我国经济增长的重要_____。我国有 14 亿人口，是全球最大、最有潜力的消费市场。从趋势看，我国消费水平和品质还有很大提升空间，居民消费优化升级同现代科技、生产方式相结合，_____着巨大的增长空间。

填入画横线部分最恰当的一项是：

A.体现　包含　　B.引擎　蕴含

C.动力　培育　　D.环节　潜藏

39.“约之以礼”，恭敬谦让，是中华民族源远流长的社会公德观。在古代，人们对官员的言行标准要高于普通公众，因为官员还承担着一定的_____功能。所谓“以吏为师”，就是说官员负有引领和塑造民风之责，要_____。

填入画横线部分最恰当的一项是：

A.教化　以身作则　　B.示范　身体力行

C.引导　身先士卒　　D.鞭策　言传身教

40.钨对于测量火星年龄_____，如果钨存在于岩心外部，表明火星快速形成；如果火星岩石中没有钨，表明火星形成较慢。此前对火星陨石中钨的分析表明，火星的形成速度很快——在太阳系形成后不到 500 万年间，火星就_____形成了。

填入画横线部分最恰当的一项是：

A.举足轻重　汇集　　B.必不可少　集中

上岸村·不辜负每一次相遇

上岸村·不辜负每一次相遇

C. 至关重要　　凝聚　　D. 不可或缺　　逐步

41. 当地充分利用农耕梯田、红瑶文化和自然风光发展乡村旅游，同时，以旅游收入反哺古民居、古建筑保护，实施梯田景观_____。厚重的红瑶民族文化、壮丽的梯田风光_____、相得益彰，彰显了中国传统农耕文明中因地制宜、天人合一的智慧。

填入画横线部分最恰当的一项是：

A. 重建　　相辅相成　　B. 修护　　水乳交融

C. 建设　　相映成趣　　D. 修复　　交相辉映

42. 作为人类文明史拼图中的珍贵_____，古 DNA 肩负着再现古人类演化历程的重担，亦承载着推动疾病医疗研究、创新药物研发等期待。通过分析古细菌、古病毒基因组，人类有望了解致病菌遗传变异规律等信息，从而更好制定_____策略。填入画横线部分最恰当的一项是：

A. 碎片　　防治　　B. 元素　　科研

C. 素材　　应对　　D. 板块　　破解

43. 北斗是大国基石，是中国数字化升级_____的新型基础设施。当下无论是自动驾驶、元宇宙还是数字经济，越来越依赖于智能感知和数据驱动，数据像石油一样维系着整个数字世界的_____，数据想要互通、发挥有效赋能作用，需要有统一的时间和空间基准来进行对齐，只有具备精确可靠的时空标签，才能达成物理世界和数字世界的精准_____，从而实现基于时空的感知、计算和协同。

填入画横线部分最恰当的一项是：

A. 举足轻重　　融合　　延伸

B. 弥足珍贵　　运行　　对照

C. 屈指可数　　建构　　连接

D. 不可或缺　　运转　　映射

44. 短视频平台上的内容良莠不齐，一些产品存在低俗、恶搞、做作、浮夸的问题。我们不能被流量法则_____，而要有所坚守，要_____低俗和恶俗作品的蔓延，让人文雅趣成为一种时尚，让创造美、传播美、欣赏美成为更多人的生活日常，让更多人心底对美和诗意的向往得以释放和_____。

填入画横线部分最恰当的一项是：

A. 影响　　拒绝　　吸收　　B. 约束　　制止　　迸发

C. 裹挟　　遏制　　融汇　　D. 左右　　避免　　荟聚

45. 互联网的发明，原本是用来让我们更高效便利地获取信息、拓展视野的，但新技术却往往存在双刃剑效应，_____它的人需要格外小心。其实，从认知

心理学的角度看，信息茧房本就一直存在，人们一旦形成观念，总是倾向于抱持_____的认知。只不过，在互联网世界，这种信息茧房效应被进一步放大，甚至被商家加以包装利用，迎合人们的_____心理，这必须引起我们的警觉。

填入画横线部分最恰当的一项是：

A.使用　既有　猎奇　　B.拥有　不变　畏难

C.驾驭　固有　懒惰　　D.开发　恒定　懈怠

46.除了火箭，随着卫星技术的快速发展，卫星通信技术及其应用也取得了较大的进步。然而卫星作为高成本的复杂航天设备，其设计、总装等过程一直存在数字化程度低、智能化水平不足等问题。若将数字孪生技术引入卫星全生命周期中，可借助孪生模型与仿真，协助卫星的多维设计与实践，从而提高卫星设计与制造的强数字化和高智能化；同时将数字孪生应用于卫星的故障预测与健康管理，可实现卫星的远程监控、状况评估、预测故障发生、定位故障原因并制定更为合理的维修策略，从而大大提高其安全系数与维护成本。

这段文字主要介绍了：

A.将数字孪生引入卫星领域的可行性

B.数字孪生在卫星领域可发挥的作用

C.解决卫星技术既有问题的有效途径

D.数字孪生主要应用场景与未来前景

47.当前，海洋经济已经成为新的全球经济增长点。相关研究显示，2022 年全国海洋生产总值 94628 亿元，占国内生产总值的比重为 7.8%。我国海洋经济综合实力不断提升，对国民经济增长的贡献度稳步增长，显现出较强的韧性和潜力。我国拥有丰富的海洋资源、结构和功能较为稳定的生态系统，是实现海洋经济可持续发展的重要依托和基础条件。然而，海洋生态保护意识淡薄、粗放开发和海洋生态保护管理与执法体制不健全等问题仍然存在，给海洋生态带来一定的干扰和破坏，成为制约海洋经济优化升级的阻滞因素。

这段文字意在说明：

A.海洋经济可持续发展和海洋生态保护之间关系密切

B.强化海洋生态保护是稳步推进国民经济增长的关键

C.应着力解决海洋生态的问题以促进海洋经济良好发展

D.要提高海洋生态保护意识以促进其与海洋经济协调发展

48.真正的文艺理论不只是要告诉人们文艺是什么和它有什么样的现象与特点，还应当告诉人们依据是什么，以及怎样来判别文艺的好坏、优劣、高下，什么样的艺术审美和精神价值才是值得大力倡导和不懈追求的。如果说，基于“实然”维度的关于文艺是什么的理论阐释，主要为人们提供观照文艺现象的认知依

上岸村·不辜负每一次相遇

上岸村·不辜负每一次相遇

据，那么基于“应然”维度的关于文艺应当如何的观念建构，则主要为人们提供理解文艺现象的价值依托。前者构成文艺理论的知识基础，后者则成为它的价值内核，而后者显得更为重要。文艺理论的根本功能不只是要阐释文艺现象、传承文艺知识，更要介入文艺实践，发挥价值导向的作用。

这段文字意在说明：

A.“真正的文艺理论”的界定标准

B.文艺理论具有不可替代的独特价值

C.建构文艺“应当如何”的价值理念

D.文艺理论更要发挥价值导向的作用

49.榜样的力量是无穷的，对大学生进行为人民服务的人生价值观教育，应当充分发挥榜样的力量。中国革命和建设历史进程中涌现出的几代伟人为大学生树立了忠于人民、依靠人民、造福人民的光辉榜样。他们的思想和业绩对青年学生立志铸魂富有教育意义。总之，在铸魂育人过程中科学理论的灌输有助提高学生的理性认识，运用榜样的力量有助增强学生的感性认识，并在此基础上升华为理性认识，二者有机相结合才能取得理想信念教育的实效。

这段文字的主旨是：

A.科学理论的学习和榜样力量的运用并行不悖

B.大学生价值观教育须结合科学理论与榜样力量

C.理性认识和感性认识共同作用于理想信念教育

D.对大学生进行价值观教育离不开榜样的力量

50.算法的逻辑机械且强势，而如果社会的协调机制过分滞后，那么则会形成新的“算法鸿沟”与社会歧视。以往的知识鸿沟、数字鸿沟更多的是由于社会结构中的教育程度、年龄层次、经济地位等要素使得社会资源分配不均，而“算法鸿沟”则有可能在分配制度的上游，通过人口数据、用户画像、使用习惯、社交关系等先期就预置了鸿沟。而随着算法回还往返于社会与系统之间，那些有机会获得工作经验、拥有学习机会、算法素养较高的群体，同那些缺少机会、相对弱势的群体之间的差距将不断拉大。而这样的差距经年累月沉积，将加重阶层固化，形成算法特权和垄断力量。

这段文字主要介绍：

A.算法社会的协调机制与社会歧视

B.算法对加剧社会阶层固化的作用

C.“算法鸿沟”的产生及相关影响

D.算法“纠偏”机制确立的深层原因

51.每个历史阶段都面临不同的社会环境，也会出现新的问题，自然便会形成特定的“国之大者”。隋唐时期，科举制度确立，开辟了选官用人的崭新路径，“国之大柄，莫先择士”，充分反映了科举取士成为时代的重大任务。宋代，在“重文轻武”的环境下，学校、人才选拔等问题日益受到关注，被视为和天地、宗庙同等重要的“国之大本”。清末，随着西方列强的入侵，国人探寻救亡图存出路，关注国际形势、发展工商业等成为时代使命。“国之大者”的内涵在历代政治家和思想家的解读和实践中得以不断丰富、不断完善，反映着一个历史阶段的突出任务，彰显着一个历史阶段治国理政的突出特点。

这段文字意在强调：

A.“国之大者”内涵的丰富和演变深受学者的影响

B.不同时期“国之大者”的内涵有其独特历史价值

C.“国之大者”内涵涵盖经济、政治、文化三方面

D.应在实践中不断丰富、完善“国之大者”的内涵

52.如今人们对自然灾害的监测方式越来越先进，应对自然灾害的手段越来越多样，但监测的准确性在对自然灾害的预测中仍然十分重要，人们在监测自然灾害时，往往会面临很多干扰。科研人员会通过用卫星监测森林中亮点的方式监测森林火灾，但有时人们难以从卫星图上直观判断亮点是由于火灾形成的，还是由于太阳光反射形成的；科研人员可以通过监测地震波进行地震预警，但放炮、建筑工地施工等行为也会产生地震波。如何以最快的速度识别并排除干扰，成为自然灾害监测需要解决的一大问题，这就需要人工智能等技术排除掉人类活动或其他因素产生的干扰信号，以减少误报。

这段文字意在说明：

A.提升自然灾害监测准确率需人工智能助力

B.目前自然灾害的监测手段存在多方面不足

C.无干扰监测是准确预测自然灾害的前提条件

D.人工智能在干扰信号识别排除领域大有可为

53.随着我国载人航天任务的发展，载人探月任务会面临月夜长时间无太阳光照等情况。如果采用传统储能发电系统，会造成探测器重量的大幅增加，无法满足载人探月任务的能源系统需求。因此，亟须研究并采用新的能源系统，支撑载人航天任务的正常实施。为了解决航天器的月夜长时间工作问题，研制团队通过大量调研分析，把目光锁定在具有较高比能量的氢氧燃料电池上。基于燃料电池的再生能源系统，其比能量是目前可充电电池的数倍。从未来载人航天任务的适应性来看，燃料电池还可以与推进、热控、环控等分系统进行一体化设计，提高资源利用效率。

上岸村·不辜负每一次相遇

上岸村·不辜负每一次相遇

这段文字意在说明：

A.我国在载人航天器供能问题上有了新研发思路

B.传统的储能发电系统并不适用于载人航天任务

C.我国载人航天任务必须解决能源系统需求问题

D.燃料电池可助力解决载人航天任务的能源供能

54.长久以来，物理学家使用标准波动方程描述光与物质的相互作用，然而，最新的研究推导出了一种适用于加速波的新型波动方程。研究表明，加速波动方程独立地创造了一支“时间之箭”，也就是说，就加速波而言，存在明确的时间方向。这是因为加速波动方程只允许时间向前流动的解，而不允许时间向后流动的解。此外，由于加速波动方程可以通过几何推导，因此它是通用的，可以解释世界上所有的波动行为。这反过来意味着时间的固定方向也是自然的一个相当普遍的属性。这一理论上的突破挑战了人们对宇宙的基本理解，为波和时间之间的关系提供了新的见解。

下列说法与原文相符的一项是：

A.标准波动方程中对宇宙的描述存在明显的误区

B.加速波动方程的通用性使得它可通过几何推导

C.加速波动方程理论打破了人类对宇宙的原有认知

D.加速波动方程并不能解释世界上所有的波动行为

55.量子计算机有朝一日可能会解决任何传统计算机无法解决的问题，比如破解目前用于保护互联网信息的加密方案。从智能手机到超级计算机，传统计算机在 0 和 1 的二进制系统上运行，称为比特。相比之下，量子计算机在量子比特上运算，量子比特可以被设置为 0、1，或者同时设置为 0 和 1 的任意混合。然而，量子计算机和经典计算机一样，很容易出现由底层物理系统“噪声”引起的错误。处理这些错误是一项艰巨的挑战。普通计算机可以通过简单地复制比特，并使用这些副本来验证正确状态进而防止错误。但量子计算机无法做到这一点，因为量子力学禁止将一个量子比特的未知状态复制给其他量子比特。

这段文字接下来最可能讲的是：

A.探索量子计算机纠错的方法

B.量子计算机出错带来的影响

C.量子计算机纠错所面临的困境

D.破解量子比特无法复制的方法

56.共同富裕是社会主义的本质要求，是中国式现代化的重要特征。在我国开启全面建设社会主义现代化国家新征程中，促进全体人民共同富裕是社会发展的重要目标。在脱贫攻坚过程中，普通话推广工作发挥了积极作用。立足新发展

阶段，在迈向共同富裕之路上，国家通用语言的推广和普及同样具有重要的基础支撑和社会服务功能。语言究竟如何促进共同富裕？这需要将语言的社会、文化、经济等职能与共同富裕的目标有机结合起来，由此促进全社会物质生活和精神生活的共同富裕。

作者在后文应该**不会**谈论：

A.普通话推广的初衷和已取得的成绩

B.语言治理营造共同富裕环境的方法

C.语言技术赋能经济发展的具体表现

D.语言文化传承对精神富裕的推动作用

57.在激烈的国际竞争中，要开辟发展新领域新赛道、塑造发展新动能新优势，从根本上说，还是要依靠科技创新。但是，高水平科技创新不是关起门来、另起炉灶的“自嗨”，而是要打造关键技术自主创新的“核心圈”、构筑技术和产业的“朋友圈”、形成带动广泛的“辐射圈”，从而推动重点产业进入全球价值链中高端。因此，_____，支持有条件的企业牵头成立产业创新领域的国际性科技组织，参与制定国际标准，为全球科技发展贡献中国力量。

填入画横线部分最恰当的一项是：

A.应积极把握新一轮科技革命的历史机遇

B.亟需加快提高我国核心技术自主创新能力

C.要鼓励企业主动融入全球科技创新网络

D.需持续强化对企业创新活动的资源倾斜

58.礼乐文明是中国传统文明的主干，对礼的研究丰富了我们对于传统社会的认识。从哲学、历史学、文献学、法学、社会学、人类学等不同角度进行的礼学研究，都取得了长足的进步。在此基础上，礼学研究急需解决的一个问题是，除了完成礼学研究的资料梳理、文献整理、历史定位之外，还缺乏理论层面的深入讨论。因而，对于礼乐制度的实质文明意义，_____。只有在这样的创新理论融会贯通之下，我们才能了解，相对于世界其他诸文明，礼乐文明的基本特点究竟是什么，它在不同的历史时期如何变迁，它在现代世界中该如何自处，并有益于人类文明的总体发展。

填入画横线部分最恰当的一项是：

A.应从宏观层面展开理论研究

B.需要建构更为系统的研究体系

C.仍然需要拓展与纵深的理论视角

D.理论探究有着非常深刻的哲学意涵

上岸村·不辜负每一次相遇

上岸村·不辜负每一次相遇

59.短视频行业之所以仍被视作新产业新事物，与我们的社会正处在全民新闻时代不无关系。人人都可以身处一线，人人都可以通过社交平台记录、表达和传播，在这样的背景下，传统的新闻传播链路被打破，很多时候的网络新闻热点并不再是由传统新闻机构报道，而是开始综合网友在“第一现场”实时反馈。最直观也最容易被传播的由网友产出的内容载体，正是短视频。此时传播的短视频中，信息、观点和广告被杂糅，短视频里有制作者的判断、观点里有制作者的推介。这是一种新的变化，但这种新的变化缺乏应有的道德伦理制衡。

文中画横线处“新的变化”指的是：

A.短视频成为新闻的内容载体

B.新闻报道的主体转向全民化

C.新闻传播链路和内容的改变

D.新闻开始表达制作者的观点

60.依托数字化来赋能城市管理，构建全方位的低碳发展转型体系，可以助力双碳目标的实现。一方面，利用数字化平台掌握城市经济发展、能源结构、产业结构以及碳排放现状，可以科学预测未来碳排放量，分析设定各个阶段碳排放峰值目标。另一方面，利用统一的减污降碳数智平台，可以帮助政府双碳管理变得实时化、具体化、准确化，为政府下达碳排放总量控制、分行业分区域控制目标，制定碳排放量调控政策等提供数据支撑。

这段文字主要说的是：

A.通过数字化赋能传统产业转型升级

B.依靠数字化平台助推低碳经济发展

C.政府数字化转型助力城市双碳管理

D.数字化可以帮助城市实现双碳目标

61.很多人认为，地球应是一个整体，内核的旋转速度和方向应该和地球保持一致。可是事实却非如此。地球从诞生伊始发生了多种动力学过程，这使得地球整体由外向内出现了地壳、地幔、液体外核、固体内核等类似洋葱或煮熟鸡蛋那样的分层结构。最新数据显示，地球与地球内核的转动速率每年相差大约0.1度，不过这个速率很可能随时间而变化。是什么导致了地球内核的差速旋转？在外部力矩作用下，地球内核会相对于地幔转动，使得内核自转与地球的自转速率不一样。这个外力可能来自地球磁场与内核的耦合及地幔与内核的重力耦合。理论上，内核自转既可以比地球自转快，也可能稍慢。

最适合做这段文字标题的是：

A.地球内部的差速旋转　　B.“表里不一”的地球

C.地球内核：星球内的星球　　D.地球内核自转速率的变化

62.盐碱地是一种生态系统，只是由于缺乏相应的修复规划和应用路径，其生态价值长期没有得到有效挖掘。因此，要坚持系统观念，遵循盐碱地水盐运动自然规律，统筹生态系统内各类要素，采用基于自然的解决方案等生态化手段，使盐碱地的治理改良具有韧性、稳定性和可持续性。同时，在盐碱地开发利用中，还要因地制宜采用间作、套作或轮作等方式，注重生态效益和经济效益双提升，强化盐碱地耕地的数量、质量、生态“三位一体”保护和利用。

最适合做这段文字标题的是：

A.多管齐下提升盐碱地质量

B.在盐碱地探索形成大农业格局

C.“唤醒”沉睡的盐碱地

D.以系统观念助力盐碱地改良

63.①到了宋朝，便形成了产品的品牌和商标

②主动在商品上刻下自己的名号，来标识和推销自己的产品，这便成为商标的雏形

③这些手工业者在陶器上刻上自己的住处和名字，以与他人区别开来，目的在于彰显自己精湛的制作技术

④后来一些品牌成为百年老字号，出现了如“张小泉”剪刀等著名品牌，这些名称本身成为产品质量过硬的符号象征

⑤早在春秋战国时期，秦国的民间陶器上便出现了“咸完里奢”“咸沙里突”的字样

⑥随着商品经济的发展，一些技术精湛的私营手工业者为了在市场竞争中取得优势，纷纷借鉴官营手工业“物勒工名”的做法

将以上6个句子重新排列，语序正确的是：

A.⑤③⑥②④①　　B.⑤⑥②③④①

C.⑥②⑤③①④　　D.⑥③②①⑤④

64.①这种劳动才能使其活动本身及其产品肯定人——展示、确证人的本质力量

②而扬弃异化劳动关键是要看劳动主体或生产主体如何对待自己的生命活动这个对象

③根据马克思的实践辩证法，劳动异化与异化的扬弃走的是同一条道路

④所以，只有这种劳动才是“真正的生产”和“全面的生产”

⑤如果仅仅把劳动看成是维持肉体存活的手段，那么就无法与动物的片面生产区分开来，这样的劳动生产的产品越多越奴役自身，越使自己非现实化

⑥只有当劳动者把劳动视为自己生命力的表现和自我意志的实现并按照美

上岸村·不辜负每一次相遇

上岸村·不辜负每一次相遇

的规律来创造时

将以上 6 个句子重新排列，语序正确的是：

A. ⑥①④③⑤②　　B. ③②⑥①⑤④

C. ⑥①⑤②③④　　D. ③②⑤⑥①④

65. 随着太空建筑技术进步，球状太空城最终将登上航天“舞台中央”。简单地说，它是一个巨大的空心球体，正中悬浮着通过可控核聚变制造的、照耀到球内每一个角落的人造太阳。为了产生重力，球状太空城也在不停地旋转。只不过，与轮辐状太空城不同的是，球状太空城总是绕着一根纵贯南北的轴线旋转，转速最快的“赤道”地区重力最大，越往南北“两极”，重力越会随着旋转半径下降而线性减小，尤其南北“两极”几乎是完全失重的。不要觉得失重区域没用，预计“两极”地区特别适合建造千层级别的超级大楼，人类日常工作居住区与商业区也将集中在那里。而重力适中、温暖舒适的体验区将更多地作为度假区和生态区。

根据这段文字，下列说法正确的是：

A. 未来太空城很大可能以轮辐状和球状为主

B. 温带地区将会存在更加显著的人口流动性

C. 人造太阳或是未来球状太空城的光照来源

D. “两极”地区将建造适合居住的超级大楼

※※※第三部分结束，请继续做第四部分！※※※

第四部分　数量关系

66. 将 100 克浓度为 10%的盐水溶液和 200 克浓度为 20%的糖水溶液混合在一起，然后将混合溶液中的水分全部蒸发掉。问剩余糖盐混合物中盐的占比为多少？

A. 20%　　B. 33.3%

C. 66.7%　　D. 80%

67. 甲、乙两人均计划用自己的压岁钱购买一套名著。甲在该名著五折时买了一套，花费了自己压岁钱的$\frac{3}{8}$；乙在该名著未打折时买了一套，花费了自己压岁钱的$\frac{1}{3}$。如果甲的压岁钱比乙少 250 元，那么这套名著的定价为多少元？

A. 30　　B. 90

C. 120　　D. 150

68. 一项工程，甲工程队单独施工 10 天可以完成工程的一半，乙工程队单独施工 5 天可以完成工程的$\frac{1}{3}$，丙工程队单独完成此项工程需要 30 天。实际开工时，甲工程队先单独做了 5 天，然后乙、丙两工程队加入，三个工程队合作完成剩余的工作。问完成此项工程一共用了多少天？

A. 10　　B. 9

C. 7　　D. 5

69. 某天，乙骑车从 B 单位去 A 单位送一份文件，当骑出 3.4 千米后，发现时间来不及，于是速度提高一倍继续向 A 单位骑行，乙开始提速时，甲开车从 A 单位出发向 B 单位行驶。当甲、乙相遇时，乙骑行了全程的$\frac{5}{9}$。如果甲开车的速度是乙初始骑车速度的 5 倍，则 A、B 两单位相距：

A. 11.2 千米　　B. 9 千米

C. 15.3 千米　　D. 14.4 千米

70. 某单位购买了 72 箱同种医用物资捐往灾区，财务人员小李不小心将单据弄脏了，只能看到总花费为 5 位数，中间三位数字为“949”，则这 72 箱医用物资的购买单价为多少元/箱？

A. 1392　　B. 1289

C. 1243　　D. 1155

71. 某班学生准备报名参加音乐、书法、美术、象棋四个兴趣班，每个学生至少选两个兴趣班报名。问至少有多少人报名，才能保证有 5 个人的报名情况完全相同？

上岸村·不辜负每一次相遇

上岸村·不辜负每一次相遇

A. 41　　B. 43

C. 45　　D. 53

72. 将红、黄、绿、蓝四种颜色的小球各 5 个放入一个不透明的袋子中，这些小球大小形状相同，从中随机摸出 3 个小球，这 3 个小球颜色各不相同的概率有多大？

A. 不到 30%　　B. 30%~35%

C. 35%~40%　　D. 超过 40%

73. 购买某商品有两种分期付款方案。方案一为免息分期：首期还款 3000 元，之后每期还款 1200 元；方案二的还款期数是方案一的 2 倍，且为有息分期，具体为还款期前半段时间每期还款 990 元，后半段时间每期还款 500 元。如果方案二比方案一需要多支付 1680 元，则该商品的价格为多少元？

A. 16080　　B. 16200

C. 17760　　D. 17880

74. 一次考试，共有 42 道题目。甲答对了 25 道、乙答对了 30 道、丙答对了 21 道。只有两人做对的题目有 15 道，三人均答错的题目有 3 道。问三人都答对的题目有多少道？

A. 28　　B. 21

C. 16　　D. 11

75. 某次运动会男女混合 4×100 米接力赛中要求每组参赛选手中至少有 2 名女运动员。已知某班男、女运动员各有 8 名，且计划最后一棒由男生甲跑。问一共有多少种不同的人员安排？

A. 1176　　B. 1344

C. 1512　　D. 1680

76. 某饭馆 9 月 10 日开业，开业当天共送出价值 600 元的代金券，之后每天都送出比前一天价值总数少 20 元的代金券。问该饭馆 9 月份一共送出价值多少元的代金券？

A. 9300　　B. 9280

C. 8580　　D. 8400

77. 某日，小杨和老杨在探讨年龄，老杨说：六年前我的年龄是你的 5 倍；小杨说：再过六年我们的年龄和就是 78 岁啦。问老杨比小杨大几岁？

A. 36　　B. 45

C. 51　　D. 66

78. 花市里，梅花 56 元/盆，菊花 49 元/盆。王老师购买这两种花一共花了 868 元。则关于王老师购买花的情况，以下说法可能正确的是：

A. 梅花比菊花多 4 盆　　B. 梅花比菊花多 8 盆

C. 菊花比梅花多 4 盆　　D. 菊花比梅花多 8 盆

79. 小李准备五一假期外出旅游，但在准备收拾行李时，却发现忘记了行李箱的密码，只记得密码的 3 个数字是不相同的偶数，并且是从小到大排列。问，小李一次尝试即成功打开密码锁的概率是多少？

A. $\frac{1}{10}$　　B. $\frac{1}{24}$

C. $\frac{1}{48}$　　D. $\frac{1}{60}$

80. 如下图所示，将一个长 20 厘米、宽 20 厘米、高 30 厘米的长方体木料加工成一个实心沙漏模型，沙漏由两个相对的圆锥构成。在弃去不用部分最少的情况下，实心沙漏模型的体积为多少立方厘米？

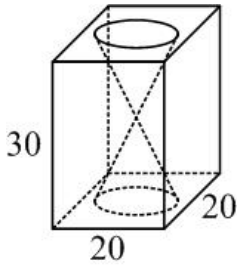

A. $\frac{1000}{3}\pi$　　B. $\frac{2000}{3}\pi$

C. 1000π　　D. 2000π

※※※第四部分结束，请继续做第五部分！※※※

上岸村·不辜负每一次相遇

上岸村·不辜负每一次相遇

第五部分 判断推理

81. 把下面的六个图形分为两类，使每一类图形都有各自的共同特征或规律，分类正确的一项是：

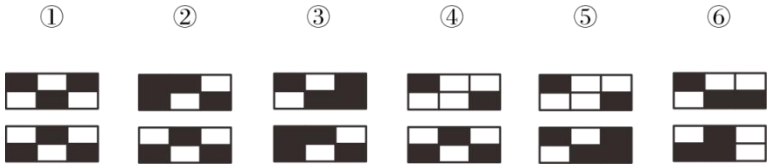

A. ①④⑥，②③⑤　　B. ①②③，④⑤⑥

C. ①③⑥，②④⑤　　D. ①③④，②⑤⑥

82. 从所给的四个选项中，选择最合适的一个填入问号处，使之呈现一定的规律性：

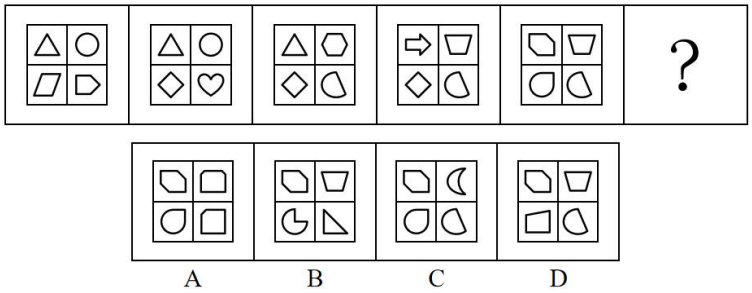

83. 把下面的六个图形分为两类，使每一类图形都有各自的共同特征或规律，分类正确的一项是：

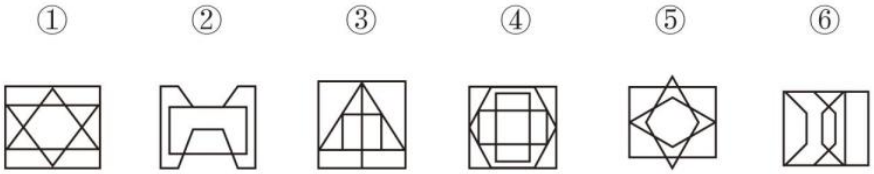

A. ①②④，③⑤⑥　　B. ①④⑥，②③⑤

C. ①③④，②⑤⑥　　D. ①②⑤，③④⑥

84. 从所给的四个选项中，选择最合适的一个填入问号处，使之呈现一定的规律性：

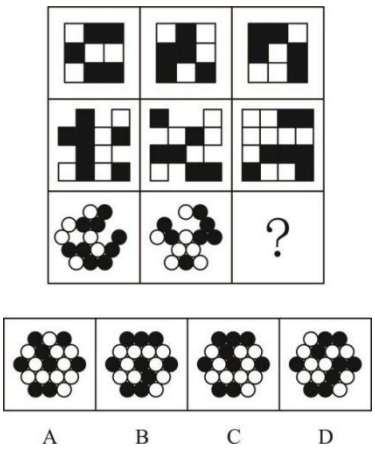

85.把下面的六个图形分为两类，使每一类图形都有各自的共同特征或规律，分类正确的一项是：

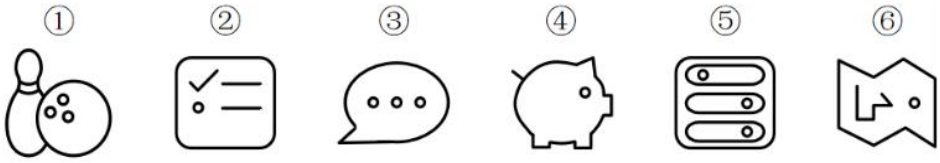

A.①②⑤，③④⑥　　B.①④⑥，②③⑤

C.①③⑤，②④⑥　　D.①⑤⑥，②③④

86.亲首是指犯罪人在犯罪以后亲自向有关机关或个人投案自首。代首是指犯罪人在犯罪以后，有投案自首的诚意，但由于种种原因不能亲自前往司法机关，而明确委托他人代为投案。送首是指未成年人或者亲属犯罪以后，由其监护人或其他有关人员将其送到司法机关投案。

根据上述定义，下列匹配**错误**的是：

A.罗某在驾车伤人后，立即将伤者送往医院抢救，并让妻子代自己投案——代首

B.张某实施盗窃后深感愧疚，于是前往公安局如实供述了自己的罪行——亲首

C.胡某在金店盗窃了金条，其父母得知后，立即将胡某送往警局——送首

D.贾某中年失业，在饭店借酒消愁，酒后损坏店家财物，店家将其送往警局——送首

87.任务分析法属于学习障碍诊断的主要方法之一。在运用任务分析法时，教育者首先要尽可能详细地解释任务的本身，把任务的完成过程分解为具体步骤，或把完成任务所需技能分解为各个方面，然后鉴别导致儿童在该任务上失败的步骤或技能上的问题。

根据上述定义，下列属于任务分析法的是：

A.教师通过观察学生在课堂上的表现，发现学生在阅读理解方面存在困难，于是增加了一些阅读练习

B.在数学课上，教师先为大家讲解了一元一次方程的基本理论，然后再通过分解解题步骤，逐步引导学生理解并掌握求解方法

C.教师在布置随堂作文考试任务前详细地解释了本次作文所要求的主旨以及文体，考试结束后老师通过批阅作文发现了大家写作中存在的问题

D.教师详细解释了一个数学问题的解题步骤，然后让学生逐步尝试解决类似的问题，记录学生在每个步骤上的表现，找出具体的困难所在

88.文化杂合是指语言文化交流过程中相互碰撞、相互影响而形成的具有双方语言文化特点的混合体。

上岸村·不辜负每一次相遇

上岸村·不辜负每一次相遇

根据上述定义，下列属于文化杂合的是：

A.在现代汉语中，出现了许多由英语音译而来的词汇，如“咖啡”“沙发”等，这些词汇已广泛融入日常交流

B.在马来西亚、泰国等东南亚国家，由于是旅游胜地，当地很多的居民既会说自己本土的语言，也会说一些中文

C.“hold 住”等网络流行语既包含了中文的表达习惯，又借鉴了英文的词汇或表达方式，形成了独特的语言风格

D.在中国的饮食文化中，引入了西方的披萨和汉堡，同时中国的饺子和春卷也在国际上受到欢迎

89.行最简形矩阵是指，若非零行（元素不全为零的行）的第一个非零元素全是 1，且非零行的第一个元素 1 所在列的其余元素全为零的矩阵。

根据上述定义，下列属于行最简形矩阵的是：

A. $\begin{pmatrix} 1 & 0 & -1 \\ 0 & 2 & 1 \\ 0 & 0 & 3 \end{pmatrix}$　　B. $\begin{pmatrix} 1 & 2 & 0 \\ 0 & 0 & 1 \\ 1 & 0 & 0 \end{pmatrix}$

C. $\begin{pmatrix} 1 & 0 & 0 & -1 \\ 0 & 1 & 0 & -2 \\ 0 & 0 & 1 & 2 \end{pmatrix}$　　D. $\begin{pmatrix} 1 & 0 & 0 & 1 \\ 0 & 1 & 0 & 1 \\ 0 & 1 & 0 & 0 \end{pmatrix}$

90.在快速变化的商业环境中，多元化战略已成为企业寻求增长、分散风险和增强竞争力的重要手段。相关多元化是指企业在现有业务基础上，拓展与核心业务相关的新产品或市场。这种战略充分利用了企业的核心竞争力和资源，降低了进入新领域的风险。非相关多元化是指企业进入与现有业务完全不相关的新领域。这种战略通常出于分散风险、寻求新的增长点或利用闲置资源的考虑。

根据上述定义，下列属于相关多元化战略的是：

A.一家传统制造企业选择进入金融服务行业，以实现业务组合的多样化

B.一家汽车配件制造公司，为扩大业务，选择生产多种型号的汽车配件

C.一家在智能手机市场取得成功的企业，进一步拓展到了智能家居领域

D.一家电池生产企业，将电池销售到更多的电动汽车、移动设备等公司

91.功能折扣是指由销售方提供给那些执行诸如销售、储存与记账等某些功能的渠道成员的价格减让。现金折扣是对在规定的时间内提前付款或用现金付款者所给予的一种价格折扣，其目的是鼓励顾客尽早付款，加速资金周转，降低销售费用，减少财务风险。季节折扣是指有些商品的生产是连续的，而其消费却具有明显的季节性。为了调节供需矛盾，这些商品的生产企业便采用季节折扣的方式，对在淡季购买商品的顾客给予一定的优惠，使企业的生产和销售在一年四季能保持相对稳定。

根据上述定义，下列属于功能折扣的是：

A.张某搬家后，订购了一批家具，家具公司指出在合同签订后的10天内支付全部款项，可以享受九折优惠

B.某电子产品制造商为了鼓励分销商积极推广其产品，给予分销商一定折扣，提高其销售积极性

C.在旅游淡季，某旅行社为了吸引游客，指出游客在淡季参加旅行团，可以享受一定比例的优惠

D.某食品生产商为了刺激公司的营销，提高了销售人员的提成，促成了多笔10万元以上的订单

92.在误导性表演当中，首先，表演者所要表演的内容是要积极向上的，符合社会公认的道德标准，为大家所认同；其次，表演者可以通过自己的表演掩盖自己的错误；再次，掩盖产生结果的过程；最后，试图让观众认为他们之间的关系比较亲密，以便达到自己的目的。

根据上述定义，下列属于误导性表演的是：

A.演员在舞台上表演励志舞台剧时，不慎失误，但他迅速调整状态，通过夸张的表演和幽默的语言掩盖了失误，使观众以为是节目效果

B.魔术师在表演前，故意不透露魔术的道具和手法，甚至通过宣传造势，让观众对即将到来的表演充满期待和好奇

C.一位演讲者在公开演讲中，不小心读错了一个关键词，于是，他立即停下来，微笑地说："看来我今天的舌头有点不听话，不过没关系，我们继续。"

D.一部悬疑电影在宣传时，只透露了部分剧情和角色设定，而关键的情节转折和结局则保持神秘，以此吸引观众走进电影院观看

93.机械振动是指物体或质点在其平衡位置附近所作有规律的往复运动。自由振动与受迫振动都属于机械振动。前者是指去掉激励或约束之后，机械系统所出现的振动；后者是指机械系统受外界持续激励所产生的振动。

根据上述定义，下列属于受迫振动的是：

A.秋千在一次推动后，开始进行有规律的前后摆动

B.跳水运动员从跳台跳下的自由落体运动

C.钟表摆轮在发条的作用下，持续进行周期性的摆动

D.柳叶随着微风的吹拂产生的摆动

94.不依赖于人们"认为"它是真还是假，而取决于客观事实的应证，或者证实它真，或者应证它假，或者事实不足以辨识真假，具备这类特征的判断，叫作客观判断。依靠人们主观评价进行真假断定的判断，叫作主观判断。

根据上述定义，下列属于客观判断的是：

上岸村·不辜负每一次相遇

上岸村·不辜负每一次相遇

A.鲁迅对《史记》的评价为：史家之绝唱，无韵之离骚

B.水的沸点在标准大气压下是 100 摄氏度

C.某首音乐的旋律非常动听

D.秋天天气凉爽，是一年当中最舒服的季节

95.从内在外在表现来看，城市化可分为景观型城市化和职能型城市化。景观型城市化，指城市性用地逐渐覆盖地域空间的过程。职能型城市化，是当代出现的一种新的城市化表现形式，指的是现代城市功能在地域系列中发挥效用的过程。

根据上述定义，下列不属于景观型城市化的是：

A.某市近年来不断扩大城区面积，将周边的农村地区纳入城市规划范围，建设了大量的住宅小区和商业中心

B.随着互联网技术的发展，某偏远小镇逐渐发展成为电子商务和物流中心，其效能辐射作用逐渐覆盖周边地区

C.某县城为了提升城市形象，对旧城区进行了大规模的拆迁、重建、扩建，建设了多个现代化公园和广场

D.某大城市为了缓解人口压力，向周边地区扩展，建设了卫星城和多个大型居住区，吸引了大量居民迁入

96.温室效应：碳汇枯竭：植树造林

A.企业亏损：资金链断裂：裁员

B.学习焦虑：注意力分散：心理疏导

C.骨质疏松：钙流失：补钙

D.交通拥堵：尾气污染：限行

97.红砖墙：水泥柱：基础支撑

A.刹车片：方向盘：减少磨损

B.细胞膜：线粒体：储存能量

C.减震器：平衡杆：稳定车身

D.防火墙：加密器：抵御病毒

98.青龙白虎：朱雀玄武：四象神兽

A.杜鹃牡丹：芍药海棠：观赏植物

B.楷书草书：行书隶书：书法字体

C.心脏肝脏：脾脏肾脏：人体器官

D.三国水浒：西游红楼：四大名著

99.丝绸：织锦工艺：繁荣

A.亚麻：印染技术：环保

B.诗词：文学创作：智慧

C.木材：雕刻工艺：传承

D.颜料：绘画艺术：情感

100.守株待兔 之于 （ ） 相当于 （ ） 之于 亡羊补牢

A.刻舟求剑；见兔顾犬

B.缘木求鱼；曲突徙薪

C.削足适履；防微杜渐

D.掩耳盗铃；江心补漏

101.一提到钙，很多人就会想到“钙是形成骨骼和牙齿的物质，分布在血液中，能帮助肌肉收缩，抑制焦躁情绪”等很多作用。一项研究发现，摄入热量相同的情形下，高钙食谱期间排出脂肪的量是正常饮食排出脂肪量的 2 倍，如果持续一年，可以多代谢掉 2-3kg 的脂肪。研究表明，补钙有助于减肥。

以下哪项如果为真，最能支持以上结论？

A.人体血钙升高后可增加一种称为降钙素的激素分泌，而降钙素这种激素可影响人的食欲

B.减肥不应该只关注体重秤上的数字，更应该关注体脂率，尤其是内脏部位的脂肪多少

C.摄入钙特别是离子钙，在肠道中能与食物中的脂肪酸、胆固醇结合，阻断肠道对脂肪的吸收，使其随粪便排出

D.相比固体钙，大多数有健身习惯的人在选择补钙产品时，更倾向于选择柠檬酸钙等液体有机钙

102.国外权威微生物实验室曾对餐饮垃圾（泔水）中的微生物进行检测，结果显示，泔水中有沙门氏菌、志贺氏菌、金黄色葡萄球菌、结核分枝杆菌等，这些细菌都是具有强烈感染性的致病菌，若不及时包扎封闭处理或及时带出户外，腐败后散发的气体存留室内将造成严重污染。因此有人认为，餐饮垃圾过多是近期感冒人群增多的罪魁祸首。

下列哪项如果为真，最能够削弱上述论点？

A.近期感冒的人群经过医院的诊断都是流感病毒引起的病毒性感冒，而不是细菌性感冒

B.感冒影响人们的嗅觉，让人们闻不到餐饮垃圾的味道

C.金黄色葡萄球菌容易造成食物中毒

D.腐败后散发的气体会刺激呼吸道

103.铅是一种常见的重金属元素，存在多种形态，包括金属铅、无机铅化合物和有机铅化合物。这些形态的铅对人体健康都有潜在的威胁，其毒性从低到高

上岸村·不辜负每一次相遇

上岸村·不辜负每一次相遇

依次为：金属铅 < 无机铅化合物 < 有机铅化合物。值得一提的是，金属铅在常温下是固态的。此外，已知四乙基铅是一种有机铅化合物，常被用作汽油添加剂，但其毒性极大。

由此不能推出的是：

A.四乙基铅的毒性大于无机铅化合物

B.所有铅化合物在常温下都是固态

C.金属铅的毒性小于有机铅化合物

D.有的有机铅化合物被用作汽油添加剂

104.近期，美国密歇根州底特律市的一条街道下方，安装了感应充电线圈，可以在电动汽车行驶、怠速或停车时为汽车电池充电。当带有特制接收器的电动汽车靠近该段道路时，道路下方的线圈会通过磁场传输电力，为车辆的电池充电。且仅当带有接收器的车辆经过线圈时，线圈才会激活。这就彻底解决了电动汽车的“里程焦虑”，无线充电公路在更大范围应用推广后，电车的销量大概都会提高不少。

以下哪项如果为真，最不能质疑上述结论？

A.建设一条无线充电公路的成本实在是太高了，而且道路耐用性也不如普通公路

B.无线充电公路采用类似高速公路那样的收费制度，额外的过路费会让很多司机望而却步

C.电动汽车除了怕续航不够，影响销量的更关键因素是价格通常超过大部分家庭的预算

D.无线充电技术早已被广泛运用在手机、电子、家居等领域，得到了许多消费者的好评

105.研究显示，受遗传、饮食、致病菌等因素影响，我国胃病患病人数高达1.2亿，近些年更是呈现年轻化、普遍化的趋势。国人懂吃，更擅养；养生之道，莫先于食。当下“食养”之风盛行，不少人尝试用食物“养胃”，有人认为，喝粥易消化，所以能养胃。但专家指出，长期喝粥不仅会削弱消化功能，还可能会加重某些胃病。

以下哪项如果为真，最能加强专家的观点？

A.大米等淀粉类食物在烹煮过程中出现的“糊化效应”，令其更易消化、吸收，这对幼儿、高龄老人等消化功能薄弱群体更为友善

B.粥的吸收速度较快，空腹喝粥，容易引起血糖波动，且粥类的升糖指数较高，并不适合血糖控制不稳定者

C.对普通人而言，进食过于软烂的食物，长此以往会让胃变得“慵懒”而出现功能衰退，本身患有胃酸分泌过多、胃穿孔的人，喝粥还会加重胃酸分泌

D.粥中的营养仅以碳水化合物为主，久食会导致其他营养素缺乏，对健康不利

106.长城的城墙除了用石头或砖砌成外，还有一部分是用夯土建造的。夯土可能会随着雨水渗入，土壤被风吹走以及温度波动而遭到破坏，但同时这种土壤也常常会覆盖有地衣、苔藓和蓝藻等生物结皮。通过从覆盖有生物结皮的城墙采集样本，并将其物理特性与裸露的、无生物结皮的夯土进行比较，研究人员发现相比之下，生物结皮覆盖的夯土孔隙较少，并且具有更高的剪切强度和抗压强度。这意味着，生物结皮可以起到防止风蚀和水蚀的作用，并有助于加固城墙。

以下哪项如果为真，不能支持上述结论：

A.生物结皮覆盖后对长城侵蚀破坏过程的影响及其机制尚不清楚

B.生物结皮表面致密的生物质充当防渗透层，有助于保持建筑内部干燥的环境

C.生物结皮会形成包裹土壤矿物颗粒和聚集体的黏性网络，能够提高抵抗外部侵蚀的稳定性

D.生物结皮的碳固定提高了土壤有机质含量，间接促进团聚体稳定性并降低夯土崩坏的可能性

107.近日，加州大学旧金山分校生物化学与生物物理学系 Brian L. Black 团队在斑马鱼和小鼠中鉴定了一种由心脏损伤诱导的转录增强缔合域（TEAD，Hippo 信号通路的下游效应子）依赖性 mmp14b 内皮增强子，发现在小鼠中，mmp14b 的功能对于集聚蛋白的积累很重要。研究提示，该增强子可作为心脏再生和修复的潜在治疗靶点。

上述论证的成立必须补充以下哪项作为前提？

A.集聚蛋白是心脏再生的重要调节因子

B.哺乳动物的心脏再生能力非常有限

C.这项开创性研究突破，有望为心肌梗死等心脏病带来全新治疗方法

D.这项重磅科学突破，近日发表于国际顶尖学术期刊《科学·进展》

108.所有哲学家都懂哲学，有些懂哲学的专家爱写文章，小明不爱写文章，所以小明不是哲学家。

以下哪项与上述推理的形式类似？

A.所有的狗都吃土豆，有些吃土豆的动物也爱吃白菜，老虎吃白菜，所以老虎是狗

上岸村·不辜负每一次相遇

上岸村·不辜负每一次相遇

B.所有想当教师的人都需要考教师资格证，有的考教师资格证的人喜欢学外语，小王考了教师资格证，所以小王想当教师

C.所有的重点大学的学生都是聪明的学生，有些聪明的学生喜欢钻研古文，小李不喜欢钻研古文，所以小李不是重点大学的学生

D.如果达到适当条件，就可以申请贷款，有些申请贷款的人喜欢投资，小张不喜欢投资，所以小张没有达到适当条件

109.在一项新研究中，美国国家海洋和大气管理局的专家对100只南方虎鲸基因组进行了测序，他们发现：与太平洋北部其他虎鲸群相比，“南方家族”的遗传多样性水平较低，近亲繁殖率高。因此有人认为，近亲繁殖是近十几年南方虎鲸寿命变短、数量减少的主要原因。

以下哪项如果为真，最能加强上述论证？

A.养鸽子的养殖户通过近亲繁殖来筛选优秀基因的信鸽

B.近亲繁殖会使虎鲸更容易受到疾病或环境因素的影响，增加它们年轻时死亡的风险

C.南方虎鲸数量减少的原因主要是食物减少了，并不是近亲繁殖

D.近亲繁殖还会影响和其他虎鲸群的交流，导致被孤立

110.张澜在制定健身计划，她准备在一周内安排好游泳、跑步、跳健身操三种活动。查看自己的时间表后，她发现了如下情况：周一到周五中可以有三天每天跑步一小时。如果周六跳健身操，那么周一就不能游泳。不能连续两天都跳健身操，一周必须跳两次健身操。最后一次跑步前一天必须游泳。

如果张澜在一周之内把三种运动都做了，那么周一到周六最好的安排应是：

A.跑步、跑步、游泳、跑步、跳操、跳操

B.游泳、跑步、跳操、跑步、跳操、跑步

C.游泳、跑步、跳操、跑步、跑步、跳操

D.跑步、跳操、跑步、游泳、跑步、跳操

※※※第五部分结束，请继续做第六部分！※※※

第六部分　资料分析

一、根据以下资料，回答 111～115 题

2024 年 1～3 月，全国国有及国有控股企业（以下称国有企业）营业总收入 198111.8 亿元，同比增长 3.2%。其中，中央企业收入 118867.1 亿元，同比增长 2.8%；地方国有企业收入 79244.7 亿元，同比增长 3.8%。

1～3 月，国有企业营业总成本 192034.5 亿元，同比增长 2.9%，其中销售费用、管理费用和财务费用同比分别增长 1.5%、增长 4.2%和增长 3.6%。其中，中央企业成本 113785.2 亿元，同比增长 2.5%；地方国有企业成本 78249.3 亿元，同比增长 3.4%。

1～3 月，国有企业利润总额 10757.6 亿元，同比增长 2.8%；国有企业应交税费 16030.6 亿元，同比增长 0.9%。

3 月末，国有企业资产总额 3852000.5 亿元，同比增长 5.6%；负债总额 2503800.3 亿元，同比增长 5.8%；所有者权益合计 1348200.2 亿元，同比增长 5.2%。其中，中央企业资产总额 1986000.2 亿元，同比增长 4.9%；负债总额 1320000.1 亿元，同比增长 5.1%；所有者权益为 666000.1 亿元，同比增长 4.6%。地方国有企业资产总额 1866000.3 亿元，同比增长 6.4%；负债总额 1183800.2 亿元，同比增长 6.5%；所有者权益为 682200.1 亿元，同比增长 6.2%。

111.2023 年 1～3 月，国有企业营业总收入最接近（　）

A.19.0 万亿元

B.19.2 万亿元

C.19.4 万亿元

D.19.6 万亿元

112.2024 年 1～3 月，在销售费用、管理费用和财务费用中，占国有企业营业总成本的比重同比上升的有几项（　）

A.0

B.1

C.2

D.3

113.2024 年 3 月末，中央企业所有者权益占国有企业总体比重比上年同期约（　）

A.下降了 0.3 个百分点

B.下降了 0.5 个百分点

C.上升了 0.3 个百分点

上岸村·不辜负每一次相遇

上岸村·不辜负每一次相遇

D. 上升了 0.5 个百分点

114. 2024 年 3 月末，中央企业的资产负债率（负债总额÷资产总额）约在以下哪个范围内？

A. 50%以下

B. 50%～60%

C. 60%～70%

D. 70%以上

115. 能够从上述资料中推出的是（　）

A. 2024 年 1～3 月，中央和地方国有企业营业成本均低于同期营业收入

B. 2023 年 1～3 月，国有企业应交税金占同期营业总收入的一成以上

C. 2024 年 3 月末，国有企业资产总额同比增长不到 20 万亿元

D. 2024 年 3 月末，地方国有企业资产负债率低于上年同期水平

二、根据以下资料，回答 116～120 题

2024 年 1～11 月我国货物运输情况

	11 月	同比增速(%)	1-11 月	同比增速(%)
货物运输总量（亿吨）	48.2	4.2	529.5	3.8
其中：铁路（亿吨）	4.3	3.1	46.8	2.8
公路（亿吨）	34.5	4.0	376.2	3.8
水运（亿吨）	9.3	5.1	88.3	4.7
民航（万吨）	78.6	18.5	819.5	22.1
货物周转总量（亿吨公里）	21828.5	6.3	238125.6	5.2
其中：铁路（亿吨公里）	2987.6	2.5	32574.3	2.2
公路（亿吨公里）	6403.2	4.1	69162.3	3.9
水运（亿吨公里）	12315.8	9.2	127286.7	8.8
民航（亿吨公里）	31.9	16.3	302.3	15.7

116. 2024 年 1～10 月我国货物运输总量为多少亿吨？（　）

A. 481.3

B. 492.7

C. 529.5

D. 577.7

117. 2023 年 1～10 月我国货物运输总量最大的领域是？（　）

A. 水运

B. 民航

C. 铁路

D. 公路

118. 2023 年 11 月我国货物周转总量中，水运周转量占比在以下哪个范围之内？（　）

A. 低于 40%

B. 40%～50%

C. 50%～60%

D. 高于 60%

119. 哪些运输方式在 2024 年 11 月的货物运输量占当月货物运输总量的比重超过上年同期水平？（　）

A. 仅铁路

B. 仅公路

C. 水运和民航

D. 公路和水运

120. 关于 2024 年 1～11 月我国货物运输状况，能够从上述资料中推出的是？（　）

A. 月均货物运输量约为 48.1 亿吨

B. 每吨货物平均运输距离为 500 多公里

C. 铁路货运量占总体比重高于其货物周转量占总体比重

D. 公路货物周转量同比增量高于水运货物周转量同比增量

三、根据以下资料，回答 121～125 题

2024 年全国服务进出口总额达 74990 亿元人民币，同比增长 14.4%，规模创历史新高。其中，服务出口同比增长 18.2%，进口同比增长 11.8%。以下为 2024 年 1-12 月服务进出口总额（人民币，亿元）及同比增速。

上岸村·不辜负每一次相遇

上岸村·不辜负每一次相遇

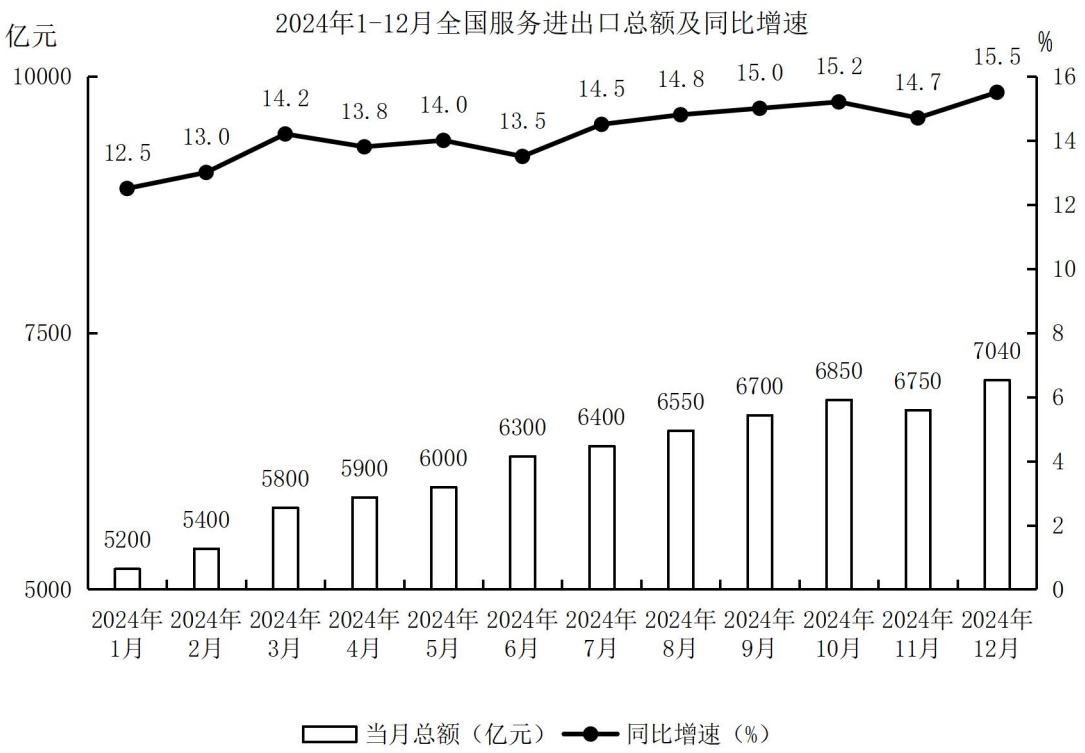

121. 2024 年下半年全国服务进出口总额约为（　）

A. 39250 亿元

B. 40290 亿元

C. 41760 亿元

D. 42930 亿元

122. 2024 年各月中，全国服务进出口总额环比增速最快的是（　）

A. 3 月

B. 7 月

C. 11 月

D. 12 月

123. 2024 年第四季度全国服务进出口总额环比增长率约为（　）

A. 增长 3.2%

B. 增长 5.0%

C. 降低 3.2%

D. 降低 5.0%

124. 2024 年 2-12 月中，全国服务进出口总额及同比增速均高于上月的月份有（　）

A. 5 个

B. 6 个

C.7 个

D.8 个

125.能够从上述材料中推出的是（　）

A.2024 年全国服务进出口总额同比增速下降的月份有 3 个

B.2024 年 12 月全国服务进出口总额较 2024 年 1 月增长 40%以上

C.2024 年 1-6 月月均服务进出口总额约为 6180 亿元

D.2023 年 11-12 月全国服务进出口总额合计不足 12000 亿元

四、根据以下资料，回答 126～130 题

2024 年 12 月，全国发行地方政府债券 10,913 亿元，同比增长 181.1%。其中，发行一般债券 823 亿元，同比增长 15.2%；发行专项债券 10,090 亿元，同比增长 218.6%。按用途划分，发行新增债券 1,303 亿元，同比减少 12.7%；发行再融资债券 9,610 亿元，同比增长 302.3%。

地方政府债券平均发行期限 18.4 年，其中新增债券 12.6 年，再融资债券 18.7 年；平均发行利率 2.13%，其中新增债券 2.08%，再融资债券 2.14%。

2024 年 1－12 月，全国发行地方政府债券合计 97,936 亿元，同比增长 16.6%。其中，发行一般债券 19,382 亿元，同比增长 7.7%；发行专项债券 78,554 亿元，同比增长 19.0%。按用途划分，发行新增债券 47,193 亿元，同比增长 5.2%；发行再融资债券 50,743 亿元，同比增长 29.7%。

地方政府债券平均发行期限 14.4 年，其中一般债券 8.4 年，专项债券 16.0 年；平均发行利率 2.29%，其中一般债券 2.27%，专项债券 2.30%。

2024 年全国地方政府债务限额为 527,874.3 亿元，其中一般债务限额 172,689.22 亿元，专项债务限额 355,185.08 亿元。截至 2024 年 12 月末，全国地方政府债务余额 475,371 亿元，其中一般债务 167,013 亿元，专项债务 308,358 亿元。

126.2024 年 12 月，全国发行的地方政府债券比 2023 年 12 月多约：

A.8957 亿元

B.7031 亿元

C.6531 亿元

D.5218 亿元

127.2023 年 1 至 11 月，全国发行地方政府债券约：

A.68235 亿元

B.71459 亿元

C.78765 亿元

上岸村·不辜负每一次相遇

上岸村·不辜负每一次相遇

D.80111 亿元

128.2023 年 1 至 12 月，发行一般债券的占比较发行专项债券的占比约：

A.低 32.6 个百分点

B.低 57.1 个百分点

C.高 32.6 个百分点

D.高 57.1 个百分点

129.2024 年 1 至 12 月，全国发行地方政府债券同比增量排序正确的是：

A.再融资债券＞专项债券＞新增债券＞一般债券

B.专项债券＞再融资债券＞新增债券＞一般债券

C.再融资债券＞新增债券＞专项债券＞一般债券

D.专项债券＞新增债券＞再融资债券＞一般债券

130.不能从上述资料推出的是：

A.截至 2024 年 12 月末，地方政府一般债务余额和专项债务余额均未超限额

B.2024 年 1 至 12 月，地方政府专项债券的平均发行利率高于一般债券 0.03 个百分点

C.2024 年 11 月，地方政府新增债券的平均发行期限比再融资债券短

D.2024 年地方一般债务限额比专项债务限额少 182495.86 亿元

※※※全部测验到此结束！※※※

参考答案

第一部分　政治理论

1.C　2.D　3.B　4.B　5.B

6.A　7.A　8.C　9.B　10.B

11.D　12.B　13.C　14.A　15.D

第二部分　常识判断

16.A　17.C　18.D　19.C　20.C

21.C　22.C　23.C　24.D　25.A

26.D　27.D　28.D　29.C　30.D

第三部分　言语理解与表达

31.B　32.D　33.C　34.C　35.C

36.B　37.C　38.B　39.A　40.C

41.D　42.A　43.D　44.C　45.C

46.B　47.C　48.D　49.B　50.C

51.B　52.A　53.D　54.C　55.A

56.A　57.C　58.C　59.C　60.D

61.B　62.C　63.C　64.D　65.C

第四部分　数量关系

66.A　67.D　68.A　69.B　70.C

71.C　72.D　73.B　74.D　75.C

76.D　77.A　78.B　79.A　80.C

第五部分　判断推理

81.C　82.B　83.D　84.B　85.C

86.D　87.D　88.C　89.C　90.C

91.B　92.A　93.C　94.B　95.B

96.C　97.C　98.D　99.C　100.A

101.C　102.A　103.B　104.D　105.C

106.A　107.A　108.C　109.B　110.D

上岸村·不辜负每一次相遇

上岸村·不辜负每一次相遇

第六部分　资料分析

111.B	112.C	113.A	114.C	115.A
116.A	117.D	118.C	119.C	120.A
121.B	122.A	123.B	124.D	125.D
126.B	127.D	128.B	129.B	130.C

上岸村 不辜负每一次相遇 | 公考教育界明星黑马

- ★ **11年**公考沉淀，只做高学历名师的优质课程，超过**370万名**“准人民公仆”加入了上岸村大家庭
- ★ 创始人|北京大学硕士
  18年129座城市公考授课，坚持长期主义，做良知教育
- ★ 高三严管基地班|名师大班面授+小班督学，解“小城市小班难有名师”之困，浓厚氛围激发学习自驱力
- ★ 私人督学VIP班|顶流名师线上授课，**10+年**教龄老师答疑，及时消除卡点；班主任1v1督学，备考更加科学
- ★ 坚持“真 · 体制内 & 公考学科带头人 & 北大、人大、北师大高学历师资”顶流匠心名师队伍，拒绝流水线和量产模板化教育

创新黑马 | 只用名师 | 私人督学 | 好课不贵 | 真诚 | 有效
高质走心 | 毫无保留 | 远离过度商业化

首选上岸村的理由

顶配师资
北大、北师大等名师矩阵

死磕教研
考官/阅卷人直授评分标准

严管督学
线上线下一站式上岸服务

真诚普惠
全网免费全套课程播放过亿

学员见证

177.3分	25广东省考笔试超高分
94.0分	24国考面试目前已知最高分
94.2分	24广东省考已知全省行测第一
92.0分	24上岸上海市考核心岗位
91.6分	23国考面试目前已知最高分
92.8分	23广东省考991人在上岸村上岸，包括全省第一

…… ……

上岸村，不辜负每一次相遇！

扫码下载“上岸村APP”　微信公众号　上岸村官网　官方小助手

扫码关注好课

VIP私人督学班（线上）

名师答疑无卡点，私人督学胜自律

高三严管式基地班(线下)

每3个基地班学员，就有1个上岸

阅卷官申论批改班

真正的申论阅卷官，非常明确的申论赋分标准
即学即用的申论学习方法，全程阅卷官团队纯手工批改