2026 年多省联考笔试预测卷二

上岸村·不辜负每一次相遇

第一部分　政治理论

根据题目要求，在四个选项中选出一个最恰当的答案。

请开始答题：

1.党的十八大以来，社会主义法治国家建设深入推进，全面依法治国总体格局基本形成。下列关于全面依法治国的说法，正确的是：

A.建设党内法规体系是全面推进依法治国的总抓手

B.党的领导是中国特色社会主义法治之魂，是同西方国家法治的最大区别

C.严格执法是维护社会公平正义的最后一道防线

D.坚持依宪治国、依宪执政，必须把宪法监督作为首要任务

2.2025 年 12 月，中央经济工作会议在京举行。会议指出，要树立和践行正确政绩观，坚持为人民出政绩、以实干出政绩，自觉按规律办事，完善差异化考核评价体系。这一论断的哲学依据是：

①人民群众是历史的主体，对社会历史的发展起决定作用

②规律具有客观性，人类在规律面前只能被动服从

③矛盾的普遍性是解决问题的关键，要做到具体问题具体分析

④实践具有直接现实性，能够将主观想法变为客观现实

A.①②③④　　B.①③④　　C.①④　　D.②③

3.习近平指出，伟大的抗战精神是中国人民弥足珍贵的精神财富，永远是激励中国人民克服一切艰难险阻、为实现中华民族伟大复兴而奋斗的强大精神动力。其哲学依据在于：

A.意识具有直接现实性的特点

B.意识对事物发展起促进作用

C.意识对人的生理活动具有决定作用

D.意识具有主观能动性，对物质起能动的反作用

4.下列体现了社会发展基本规律“第一对矛盾”范畴的是：

①深化机构职能优化改革，更好适配经济高质量发展的现实需求

②数据作为生产要素参与分配

③推进人工智能同实体经济深度融合

④完善工资集体协商机制，推行员工持股计划

A.①②③　　B.①③④　　C.①②④　　D.②③④

上岸村·不辜负每一次相遇

5.2025 年 4 月，中华全国总工会成立 100 周年暨全国劳动模范和先进工作者表彰大会在京举行。习近平在会上高度赞扬工人阶级的重要贡献。下列说法正确的是：

A.工人阶级是我党最坚实最可靠的阶级基础，是国家的领导阶级

B.随着时代发展变化，我国工人阶级的地位和作用也随之改变

C.我国工会坚持政治性、先进性、群众性，是党联系企业的桥梁和纽带

D.坚持全心全意依靠工人阶级的根本方针，充分发挥工人阶级先锋队作用

6.2025 年 7 月，习近平主持召开中央财经委员会第六次会议，研究纵深推进全国统一大市场建设等问题。下列相关举措，说法正确的是：

A.着力整治地方招商引资乱象，要制定有地方特色的招商引资行为清单

B.着力补齐法规制度短板，修改完善法律法规，强化制度标准的柔性约束

C.着力推动内外贸一体化发展，畅通内销转出口路径

D.着力纠治政绩观偏差，完善高质量发展考核体系和干部政绩考核评价体系

7.2026 年 1 月，第 2 期《求是》杂志发表习近平重要文章《在中央城市工作会议上的讲话》。文章指出，优化现代化城市体系，必须促进大中小城市和小城镇协调发展。下列相关举措，说法正确的有几项？

①要扩大超大城市规模，做精核心功能和非核心功能，打造高质量发展主引擎

②要把京津冀、长三角、粤港澳大湾区城市群打造成高质量发展增长极

③对人口持续流出的城市和资源型城市，持续推动转型发展

④推进以县城为重要载体的城镇化建设，统筹规划建设城乡基础设施和公共服务体系

⑤要严格限制超高层建筑，增强高空消防能力，全面提升房屋安全保障水平

A.2 项　　B.3 项　　C.4 项　　D.5 项

8.2025 年 12 月，中央经济工作会议在京举行。会议提出，要坚持内需主导，建设强大国内市场。下列属于相关举措的是：

①深入实施提振消费专项行动，制定实施城乡居民增收计划

②鼓励支持服务出口，积极发展数字贸易、绿色贸易

③清理消费领域不合理限制措施，释放服务消费潜力

④继续发挥新型政策性金融工具作用，有效激发民间投资活力

⑤推动投资止跌回稳，适当减少中央预算内投资规模

A.②③⑤　　B.①③④　　C.①②③④　　D.①④⑤

上岸村·不辜负每一次相遇

9.2025 年 10 月，《关于制定国民经济和社会发展第十五个五年规划的建议》发布。《建议》指出，要建设现代化产业体系，巩固壮大实体经济根基。下列相关说法，正确的是：

A.坚持把发展经济的着力点放在国有经济上，坚持智能化、绿色化、融合化方向

B.保持制造业合理比重，构建以先进服务业为骨干的现代化产业体系

C.促进制造业数智化转型，发展智能制造、绿色制造、服务型制造

D.推动量子科技、生物制造、氢能和核聚变能、脑机接口、具身智能、第五代移动通信等成为新的经济增长点

10.2026 年 2 月，第 3 期《求是》杂志发表习近平重要文章《走好中国特色金融发展之路，建设金融强国》。下列说法正确的有几项？

①坚持把金融服务实体经济作为根本宗旨，坚持稳中求进工作总基调

②坚持把经济增长作为金融工作的永恒主题，坚持深化金融供给侧结构性改革

③我国金融体系的重要特征和优势是民营金融机构占主体，但存在间接融资和债权融资比重偏高、金融服务普惠性不足等问题

④金融行业以信用为基础，更要坚持契约精神，恪守市场规则和职业操守

⑤金融具有功能性和盈利性双重属性，盈利要服从功能发挥

A.2 项　　B.3 项　　C.4 项　　D.5 项

11.2026 年中央一号文件《关于锚定农业农村现代化 扎实推进乡村全面振兴的意见》指出，要实施常态化精准帮扶。下列相关举措，表述不正确的：

A.优化产业帮扶方式，分类推进现有产业巩固、升级、盘活、调整

B.中央财政常态化帮扶资金用于产业发展的比例，在省级可实行差别化要求，县级保持基本稳定

C.完善产业帮扶到户奖补政策，支持防止返贫致贫对象经营增收

D.分别确定国家和省级乡村振兴重点帮扶县，完善支持政策和激励约束机制

12.2026 年 1 月，中国共产党第二十届中央纪律检查委员会第五次全体会议召开。全会强调，“十五五”时期是基本实现社会主义现代化夯实基础、全面发力的关键时期，全面从严治党面临新的形势任务。下列对于纪检监察机关的要求，说法正确的有几项？

①要深刻把握实现“十五五”时期目标任务对维护党的团结统一提出的更高要求，坚定不移推动全党拥护“两个确立”、做到“两个维护”

②要深刻把握实现“十五五”时期目标任务对把权力关进制度笼子提出的更高要求，坚定不移强化制度治权、依规用权

上岸村·不辜负每一次相遇

③要深刻把握实现“十五五”时期目标任务对保持党的先进性纯洁性提出的更高要求，坚定不移走好中国特色反腐败之路

④要深刻把握实现“十五五”时期目标任务对激励担当作为提出的更高要求，坚定不移促进党员干部在遵规守纪中干事创业

A.1 项　　B.2 项　　C.3 项　　D.4 项

13.2025 年 6 月，中共中央政治局就健全落实中央八项规定精神、纠治“四风”长效机制进行第二十一次集体学习。下列说法正确的有几项？

①从严监督执纪是党的自我革命的利器，对违纪违法问题必须坚决处理

②要把党内监督和人民监督结合起来，重视发挥党内监督“前哨”作用

③要加大风腐同查同治力度，将党风党纪硬要求变为硬举措

④基层干部作为“关键少数”，要坚决扛起管党治党责任

A.1 项　　B.2 项　　C.3 项　　D.4 项

14.2025 年 12 月，第 24 期《求是》杂志发表习近平重要文章《扩大内需是战略之举》。文章指出，要坚持惠民生和促消费、投资于物和投资于人紧密结合。下列属于投资于人范畴的是：

①全国范围内免除公办幼儿园学前一年在园儿童保育教育费

②开工建设雅鲁藏布江下游水电工程，规划总装机规模约 6000 万千瓦

③对符合法律法规规定生育的 3 周岁以下婴幼儿发放育儿补贴

④实施中度以上失能老年人养老服务消费补贴政策

⑤推进“西电东送”骨干网架升级改造工程

A.①②③　　B.①③④　　C.②④⑤　　D.①③⑤

15.2025 年 10 月，《关于制定国民经济和社会发展第十五个五年规划的建议》发布。《建议》指出，要提升宏观经济治理效能。下列说法正确的是：

A.强化国家发展规划战略导向作用，加强财政、货币政策协同

B.促进形成更多由内需主导、投资拉动、内生增长的经济发展模式

C.稳步发展股权、债券等直接融资，限制发展期货、衍生品和资产证券化

D.深化基数预算改革，统一预算分配权，加强预算绩效管理

※※※第一部分结束，请继续做第二部分！※※※

上岸村·不辜负每一次相遇

第二部分　常识判断

根据题目要求，在四个选项中选出一个最恰当的答案。

请开始答题：

16.根据《中华人民共和国行政许可法》，下列说法正确的是：

A.设区的市政府规章可设定企业设立登记的行政许可

B.行政机关对被许可人从事行政许可事项的监督检查，应当收取费用

C.由于公共利益需要，政府撤回对某天然气项目的特许经营许可，应当依法给予赔偿

D.某建筑公司在经营许可审批中贿赂工作人员，行政机关应当撤销该公司的经营许可

17.某日，杨某乘坐张某开的出租车外出办事，当车正常行驶在主干道上时，前方突然出现一小孩横穿马路，张某立即采取紧急刹车。避免了车祸的发生，但却导致杨某的头部擦伤，杨某前往医院花费医疗费 500 元。下列相关说法，错误的是：

A.张某的行为属于紧急避险

B.小孩的监护人应承担对其小孩监护不力的责任

C.张某与杨某之间存在合同关系

D.杨某的医疗费只能由他本人承担

18.关于行政复议和行政诉讼两种救济程序，下列说法错误的是：

A.行政复议体现了行政体系的内部监督，行政诉讼体现的是外部监督

B.两者的审查范围不同，行政诉讼只审查行政行为的合法性，对实质合理性一般不审查

C.可以申请行政复议的案件也能提起行政诉讼

D.二者受理机关的性质不同，复议的受理机关是行政机关，诉讼的受理机关是司法机关

19.2025 年 12 月，中央经济工作会议召开。会议提出，2026 年要继续实施适度宽松的货币政策。关于货币政策，下列说法错误的是：

A.利率传导机制的路径通常为“政策利率→市场利率→投资/消费→总需求”

B.经济过热时，中央银行可以采取提高存款准备金率等紧缩性货币政策

C.中央银行在公开市场卖出国债，会向市场投放流动性，属于扩张性货币政策

D.中央银行通过降低再贴现率，可以鼓励商业银行增加借款和放贷

上岸村·不辜负每一次相遇

20.2025 年 11 月，《关于增强消费品供需适配性进一步促进消费的实施方案》印发。《方案》指出，增强供需适配性是进一步释放消费潜力、畅通经济循环的有效举措。下列关于供给和需求的说法，不正确的是：

A.供求关系影响价格波动，价格信号引导资源优化配置，是市场经济的基本规律

B.当消费者收入增加时，对正常商品的需求会增加，对低档商品的需求会减少

C.某商品替代品价格大幅上涨，通常会导致该商品的需求量增加

D.供给侧结构性改革的核心是扩大生产要素投入规模，通过增加资本、劳动力等要素供给来提升潜在产出

21.2025 年 9 月，第 17 期《求是》杂志发表习近平重要文章《弘扬伟大抗战精神，向着中华民族伟大复兴的光辉彼岸奋勇前进》。文章强调，进入近代以后，由于列强的入侵和封建统治的腐败，中国落伍了，一步步成为半殖民地半封建社会。下列相关史实，说法错误的是：

A.《南京条约》的签订，使中国开始沦为半殖民地半封建社会

B.《北京条约》的签订，使中国半殖民地半封建化程度初步加深

C.《马关条约》的签订，使中国半殖民地半封建化程度大大加深

D.《瑷珲条约》的签订，使中国完全沦为半殖民地半封建社会

22.习近平指出，在社会主义核心价值观中，最深层、最根本、最永恒的是爱国主义。拥有家国情怀的作品，最能感召中华儿女团结奋斗。下列名言名句与作者对应错误的是：

A.文天祥——人生自古谁无死，留取丹心照汗青

B.陆游——剑外忽传收蓟北，初闻涕泪满衣裳

C.范仲淹——先天下之忧而忧，后天下之乐而乐

D.林则徐——苟利国家生死以，岂因祸福避趋之

23.2026 年央视春节联欢晚会的戏曲节目《春晖满梨园》，汇集京剧、豫剧、越剧、粤剧、评剧五大剧种，由老中青幼四代戏曲演员共同呈现。下列关于我国戏曲，说法错误的是：

A.京剧电影《定军山》是中国第一部电影，其内容取材于《水浒传》中的故事

B.粤剧唱腔以梆子、二黄为主体，并广泛吸收南音、木鱼等地方说唱和流行小曲

C.昆曲是我国首个列入人类非物质文化遗产代表作名录的项目，被称为“百戏之祖”

D.豫剧的伴奏乐队以板胡、二胡、琵琶、笙等乐器为主，其中板胡是领奏乐器，俗称“瓢”

24.2025 年 1 月，文化和旅游部等 4 部门联合印发《长江国家文化公园建设保护规划》。关于长江，下列表述错误的是：

A.长江是我国长度最长、年径流量最大、流域面积最广的河流

B.长江干流上中游分界点是湖北宜昌，中下游分界点是江西湖口

C.长江发源于青藏高原唐古拉山脉，流经我国地势三级阶梯，最终注入黄海

D.长江中游的“九曲回肠”河段因河道弯曲、水流缓慢，易发生洪涝灾害

25.2025 年 4 月 24 日，主题为“海上生明月，九天揽星河”的第十个中国航天日主场活动在上海举办。下列关于我国航天成就，对应错误的是：

A.载人月球车——“玉兔”　　B.行星探测系列——“天问”

C.可重复使用载人航天器——“梦舟”　D.首辆火星车——“祝融”

26.2025 年 5 月 21 日是联合国确定的“国际茶日”。下列关于茶的说法，错误的是：

A.“普洱景迈山古茶林文化景观”是全球首个“茶”主题世界遗产

B.《茶经》是贾思勰所著，是世界上现存最早、最完整、最全面的茶学专著

C.绿茶是我国产量最大的茶类，西湖龙井、黄山毛峰均为绿茶

D.茶叶中的茶多酚具有抗氧化作用，茶氨酸可缓解焦虑，茶多糖辅助降血糖

27.2025 年 6 月发布的《中国能源生态报告》显示，2024 年，我国光伏、风电装机容量连续 10 年位居全球首位。下列关于我国能源发展的表述，正确的是：

A.我国“富煤、贫油、少气”的资源特点决定了煤炭将长期作为主体能源

B.核电已成为我国能源消费的主力，广东大亚湾核电站是我国首座商用核电站

C.光伏发电是将太阳能直接转化为电能，风能发电是将风能转化为机械能再转化为电能

D.水电是我国目前装机容量最大的可再生能源，白鹤滩水电站是世界规模最大水电站

28.2025 年 7 月，“天舟九号”货运飞船顺利发射。下列关于“天舟”系列飞船的说法，正确的是：

A.天舟六号首次实现与天和核心舱的两小时自主快速交会对接

B.天舟七号发射任务是我国载人空间站应用与发展阶段的首次发射任务

C.天舟八号货运飞船的发射地点是西昌卫星发射中心

D.天舟九号货运飞船成功对接于空间站天和核心舱后向端口

上岸村·不辜负每一次相遇

上岸村·不辜负每一次相遇

29.2025 年 12 月 26 日，随着西安至延安高铁开通运营，中国高铁营业里程突破 5 万公里。下列相关说法，不正确的是：

A.中国高铁营业里程位居世界第一位，超过世界上其他国家高铁营业里程的总和

B.京津城际是中国首条设计时速 350 公里的高速铁路

C.京张铁路是中国首条完全自主设计、施工的干线铁路

D.“复兴号”系列主要为早期引进消化吸收再创新的技术平台，“和谐号”系列以完全自主知识产权、中国标准为核心特征

30.2025 年 8 月，《国务院关于深入实施“人工智能+”行动的意见》发布。下列关于人工智能的说法，错误的是：

A.伦理规范是人工智能发展的重要保障，防止算法偏见、保护用户隐私是当前人工智能伦理治理的核心议题之一

B.人工智能的“训练”过程需消耗大量算力，且训练数据的质量与多样性直接影响模型的泛化能力

C.ChatGPT 等生成式人工智能本质是基于规则的逻辑推理系统，无需依赖海量数据训练即可生成连贯文本

D.人工智能在医疗影像诊断、自动驾驶等领域的应用，需通过算法优化降低“黑箱问题”带来的决策风险

※※※第二部分结束，请继续做第三部分！※※※

第三部分　言语理解与表达

31．众所周知，面对信息化社会的“知识爆炸”，面对扩增迅猛、体量庞大的知识信息海洋，传统阅读方式在摄取知识、梳理信息、消化内容方面，已经不是“时不我待”能够形容，而常常是“_____”。

填入画横线部分最恰当的一项是：

A.畏葸不前　　B.望洋兴叹

C.进退维谷　　D.甘拜下风

32．重视调查研究、充分听取人民群众意见，坚持问计于民的工作思路要一以贯之的传承下去。党员干部在制定政策，推行方案的时候不能想当然，而必须要结合当地实际情况，与当地人民群众的利益相符合，否则很可能就是_____，最终的结果会是南辕北辙。

填入画横线部分最恰当的一项是：

A.闭门造车　　B.胶柱鼓瑟

C.纸上谈兵　　D.坐而论道

33．在古代，兴建洞窟作为宗教修行的一部分，壁画中饱含了僧人艺匠的功夫与诚心。虽说这种艺术体例不强调个人创作，但在壁画中却也时时闪现出个人笔触的精妙，观者若用心_____则可能形成一种穿越古今的对话。

填入画横线部分最恰当的一项是：

A.体会　　B.体悟

C.体察　　D.体验

34．创新动画“画风”，需要讲述符合当代生活情境的故事，注入契合观众情感需要的内涵，让观众产生_____从而真心喜欢，如此才能使新的“中国风”落地生根。创作者们正以这样的创作理念_____内容与主题，注重在与当代观众的情感连接中激活中华文化基因。

填入画横线部分最恰当的一项是：

A.满足感　审视　　B.新鲜感　探求

C.代入感　开掘　　D.互动感　构建

35．自古以来，音乐和诗歌一直_____，“所谓诗歌即是音乐，所谓诗经即是乐经”。但只有新月派和象征派少数诗作中留有《诗经》音乐性的一点余脉，大多数诗人对中国古典诗学的音乐性缺乏体认。新月派和象征派诗人对新诗格律和音乐性进行了积极的理论探讨与实践创作，并取得明显成绩，最终却因过于追求形式而_____。

填入画横线部分最恰当的一项是：

A.如影随形　戛然而止　　B.珠联璧合　得不偿失

上岸村·不辜负每一次相遇

上岸村·不辜负每一次相遇

C. 不分轩轾　顾此失彼　　D. 相得益彰　难以为继

36. 战争是敌我双方生与死的对抗、血与火的较量，是零和博弈，一旦失败，代价惨重。但在现实中，仍有个别单位不注重_____沉浸式练兵条件，粗放化的训练模式与实战化要求存在很大差距；不注重科技赋能，对于练兵过程不能精确控制，复盘不全面，评估不科学……如此，训练看似热热闹闹、轰轰烈烈，实则凌空蹈虚、_____，大大降低了训练质效。

填入画横线部分最恰当的一项是：

A. 优化　花拳绣腿　　B. 改善　事倍功半

C. 营造　徒劳无功　　D. 构设　收效甚微

37. 作文与做人、人的素质是紧密联系的。领导干部改进文风，就要不断学习。理论功底扎实了，知识积累厚实了，肚子里装的东西多了，才能_____，言之有物、_____地讲话、写文章。

填入画横线部分最恰当的一项是：

A. 游刃有余　引经据典　　B. 厚积薄发　深入浅出

C. 驾轻就熟　滔滔不绝　　D. 妙语连珠　言简意赅

38. 巴蜀大地，被崇山峻岭所困。为了沟通内外，人们修筑了蜀道。蜀道_____了秦岭、大巴山，联系起关中平原与四川盆地。它帮助秦人将蜀地经营成稳固的天府之国，为统一天下奠定坚实的基础。蜀道也像一个开关键，控制着四川的开放和封闭。蜀道开，古蜀灭；蜀人_____，川人浮现。

填入画横线部分最恰当的一项是：

A. 贯穿　覆灭　　B. 连接　退藏

C. 联通　蛰伏　　D. 打通　消隐

39. 尽管从根本上解决应对气候变化的问题要靠减排，但主动增强气候变化适应能力，可以减轻其带来的_____的负面影响。要完善极端天气风险防范和应急响应机制，强化水、电、油、气等城市生命线的_____。同时加大生态系统保护与修复，增强生态系统在涵养水源、净化水质、蓄洪抗旱、调节气候和维护生物多样性等方面的重要作用。

填入画横线部分最恰当的一项是：

A. 铺天盖地　张力　　B. 不可避免　韧性

C. 前所未有　供给　　D. 始料未及　维护

40. 当前的评论文体还不能完全适应网络传媒，不能适应大众需要。某些评论文章被所谓的“论文格式”所绑架，“学术八股气”很浓，穿靴戴帽，繁文缛节，引经据典，动辄万言，学术架势很吓人，让人_____。评论文体应当自由

活泼、长短不限。要面向大众，评论文体和风格就要多样化、生动化、深入浅出，增强亲和力、_____。

填入画横线部分最恰当的一项是：

A. 望而生畏　影响力　　B. 望而却步　吸引力

C. 退避三舍　感染力　　D. 敬而远之　说服力

41．近年来，我国农业科技贡献率_____，但与农业生产的需求深度和广度相比，还有很大提升空间。有研究指出，我国农业科技成果的转化率只有约40%。一面是大量“_____”的科技成果，另一面是农业生产对技术进步的迫切需求。其中一个重要原因，就是农业科研活动和生产联系还不够紧密。

填入画横线部分最恰当的一项是：

A. 水涨船高　积压　　B. 节节攀升　沉睡

C. 遥遥领先　涌现　　D. 差强人意　搁置

42．数字技术的应用可以打破不同行业、企业以及市场间的信息_____，挖掘大量生产者、市场上下游主体以及消费者生产的海量数据，分析提炼出有用的信息，进行交互连接、融合使用，使数据的价值大大增加，从而_____跨界融合的新业态。

填入画横线部分最恰当的一项是：

A. 鸿沟　衍生　　B. 壁垒　催生

C. 屏障　派生　　D. 藩篱　诞生

43．如果需要理解一个时代的精神特质，系统提炼其优秀文化元素，对宋韵文化还应有更为全面深刻的认识。既不能局限于对“韵”字作狭义的字面理解，也不能不做_____、不加选择地将其等同于_____、良莠并存的两宋文化。认识理解宋韵文化，需秉承_____、理性客观的认识态度，才能透过现象看本质，准确把握一个时代的历史“底盘”，提升宋韵文化的基调和品质。

填入画横线部分最恰当的一项是：

A. 区分　丰富多彩　恰如其分

B. 辨析　包罗万象　实事求是

C. 鉴别　兼收并蓄　不偏不倚

D. 取舍　百花齐放　一视同仁

44．公众对于“数字反哺”的理解，多数_____于“技术反哺”层面，认为只要教会老人滑屏、点击、退出等操作即完成了帮助过程。事实上，数字时代，“数字原住民”需要帮助“数字遗民”实现文化层面的“再社会化”：帮助他们_____操作的逻辑设计、共识的数字知识、流行语和表情包等“社交货币”，使老人在文化上有_____。

上岸村·不辜负每一次相遇

上岸村·不辜负每一次相遇

填入画横线部分最恰当的一项是：

A.局限　　明晰　　归属感

B.拘泥　　知晓　　获得感

C.停留　　掌握　　融入感

D.止步　　了解　　认同感

45．高空抛物严重_____了社会公共秩序、影响了居民生活安全，特别是现代城市普遍高楼林立，人口密集。虽然绝大多数高空抛物案件中，实施者并非_____危害社会公共秩序，或者出于玩乐之心，或者是疏忽大意，或者是发泄情绪，但却极易_____社会矛盾，影响生活安宁。

填入画横线部分最恰当的一项是：

A.扰乱　　蓄意　　引发　　B.妨碍　　恶意　　加剧

C.破坏　　刻意　　激化　　D.危及　　特意　　诱发

46．作为AI技术专家的个人能够通过技术和应用创新，开发用于检测虚假信息的AI算法和模型。尽管人工智能在提取虚假信息方面具有可靠的洞察力，但依然需要分析师和数据专家的辅助，实现大数据、高等算力等的最佳配置，才能将计算结果转化为可解释、可操作的优质结论。也就是说，最精确的人工智能模型只有依靠人类自身的专业知识来训练和强化才可能实现。同时，为减轻虚假信息病毒式传播所造成的风险，需要人们主动实施反制措施，并对虚假信息文本进行多角度分析，这也只有通过“人类+人工智能”的路径才能实现。

这段文字意在说明：

A.AI技术识别虚假信息的能力尚需进一步提升

B.合理使用AI技术可促进对网络虚假信息的治理

C.人机合作治理网络虚假信息关键仍然在“人”

D.“人类+人工智能”是治理网络谣言的有效途径

47．随着作战方式的变革，军事数据已成为举足轻重的战略资源，“数据战”作为一种崭新的作战样式逐步显现，敌对双方将围绕夺取“制数据权”展开激烈争夺，以便快速达成作战决策及行动优势，进而将其适时转化成作战胜势。此外，数据的高效流动、研判、整合和共享成为制胜的关键要素。数据如同血液一样，促进不同作战单元和作战要素的互联互通，数据的共享、集成与分发，会几何级激发作战体系“活力”，使战场态势更加透明、指挥更加精准。未来战场上，没有数据和网络体系做支撑，武器平台、火力系统和信息系统将难以充分发挥效能。离开作战数据支撑，“战争潜能”就如同无源之水，先进武器装备将沦为中看不中用的花架子。

这段文字意在强调：

A.在信息时代数据成为决定战场胜负的重要因素

B.新时代构建打赢战争的军事数据基础势在必行

C.有效的军事数据日益成为战斗力生成的倍增器

D.数据作用的凸显使“制数据权”成为争夺焦点

48．有机蔬菜是指来自有机农业生产体系，根据国际有机农业的生产技术标准生产出来的，经独立的有机食品认证机构认证允许使用“有机食品”标志的蔬菜。有机蔬菜的核心是保障安全，但安全和营养是两个完全不同的概念，不应混为一谈。客观来讲，有机蔬菜与普通蔬菜相比，在安全性上有绝对的优势，但并不能据此认为有机蔬菜的营养也比普通蔬菜丰富。另据我国实验研究发现，同品种有机蔬菜与普通蔬菜两者营养成分含量各有高低。

上述文字主要用来反驳以下哪个观点？

A.有机蔬菜兼具营养和安全

B.普通蔬菜不具有相关标志

C.不是所有蔬菜都对人体有好处

D.有机蔬菜比普通蔬菜更有营养

49．着力提高人口整体素质，是引领我国人口发展新常态的必由之路。面对人口发展新形势，要把教育强国建设作为人口高质量发展的战略工程，推动我国从人力资源大国向人力资源强国迈进。一方面，要加快建设高质量教育体系，全面提高人口科学文化素质、健康素质、思想道德素质，加强劳动技能培训，提高劳动生产率；另一方面，要深化人才发展体制机制改革，改进人才评价机制，破除“唯论文、唯职称、唯学历、唯奖项”等沉疴顽疾，激发各类人才创新创造活力，努力实现人力资源的高效开发利用。

这段文字意在强调：

A.提高人口素质对适应人口新常态的重要性

B.人口高质量发展需要系统谋划和创新驱动

C.创新人才评价机制才能高效利用人力资源

D.如何通过教育强国建设迈向人力资源强国

50．应急语言是国家在突发的公共事件中所需要使用的语言，是一个国家语言能力的重要组成部分，又体现了国家的治理能力。我国自 2011 年开始了国家应急语言服务体系的建设，经过十余年的发展，我国的应急语言服务体系取得了重大的进步，逐步的明确了应急语言服务体系的发展规划与发展路径。可以确定的是，未来应急语言的服务功能还需进一步的加强。高校作为人才培养的主要阵地，应责无旁贷的承担起应急语言教育的重任，构建应急语言服务人才培养体系，提高应急语言人才的能力与素质，为国家提供更多的高素质的应急语言人才。

上岸村·不辜负每一次相遇

上岸村·不辜负每一次相遇

这段文字意在说明：

A.应急语言在公共事件中发挥着重要作用

B.我国应急语言服务体系的建设任重道远

C.高校是我国提高应急语言能力的主阵地

D.高校要承担起培养应急语言人才的重任

51．人机交互中的动觉感知技术在医疗、运动、虚拟现实等领域具有重要意义。动觉是人类一种与运动相关的身体感觉，能够帮助人类感知身体的运动状态。如何通过传感系统的设计准确描述运动状态，实现类似于人类的“动觉感知”，对于智能感知系统是十分重要的。作为可穿戴设备，通过应变传感器测量目标物体的表面形变以描述其运动状态，是实现动觉感知的主要方法之一。然而待测物体的表面形变往往由多种简单形变复合而成，无法被应变传感器的一维信号描述，从而导致传感系统无法反映复杂的运动。

关于“动觉感知”技术，这段文字**未提及**：

A.应用领域　　B.实现方法

C.发展前景　　D.技术难题

52．中子星是目前已知的、最致密的天体。中子星每立方厘米的物质足足有几亿吨重。中子星是怎么形成的？科学家认为，当恒星寿命结束时，经过引力坍缩，在其核心会形成残余物，而中子星就是残余物的一种。如果残余的质量超过一定极限，不足以支撑其形成中子星，它就会继续坍缩，形成黑洞。一旦中子星形成，它就不再主动产生热量，并随着时间的推移而逐渐冷却。不过，中子星仍可能通过碰撞或吸积邻近天体的物质进一步演化。

根据这段文字，下列说法正确的是：

A.中子星形成后仍可能发生温度的变化

B.中子星是目前已知的质量最重的天体

C.形成中子星是黑洞产生的必经的过程

D.中子星的超高质量加快了其形成速度

53．中小企业是经济社会发展的重要力量，是稳增长、惠民生、保就业、防风险、促改革的重要载体，也是包容性增长的积极践行者；促进中小企业发展，本身也是践行包容性增长的重要内容。我国已转向高质量发展阶段，必须大力发展中小企业特别是“专精特新”中小企业，发挥好其补链固链强链作用，为构建新发展格局注入源源不断的新动力，推动实现包容性增长。由于中小企业与大企业在国家产业政策、竞争机会和政府支持政策等方面长期存在的差异性，中小企业的生产和发展面临着诸多“不包容”的问题，经营压力和困难较大，亟需大量公共服务的支撑和匹配。

这段文字接下来最可能讲的是：

A.公共服务如何解决中小企业面临的不包容问题

B.中小企业在生产和发展中所面临的压力和困难

C.中小企业对推动实现包容性增长所起到的作用

D.具体介绍公共服务平台的优势以及存在的问题

54. _____。回顾历史，支撑我们这个古老民族走到今天的，支撑五千多年中华文明延绵至今的，是植根于中华民族血脉深处的文化基因。展望未来，在民族复兴伟大征程上，我们要到达更远的彼岸、创造更加辉煌的成就，就必须增强历史自觉，寻根固本、鉴往知来，始终坚持中华民族历史长河中一脉相承的精神追求、精神特质、精神脉络，不断增强道路自信、理论自信、制度自信、文化自信，在延续民族文化的血脉中开拓前进，推动中华文明焕发出更加蓬勃的生命力。

填入画横线部分最恰当的一项是：

A.源浚者流长，根深者叶茂

B.观今宜鉴古，无古不成今

C.安危不贰其志，险易不革其心

D.咬定青山不放松，立根原在破岩中

55. 在农耕文明背景下，以土木为主要结构的中国古代建筑几千年来在历史变迁中缓慢发展，_____。当代，我国在国际上首创的全预制装配式地铁车站，就充分运用了榫卯结构的营造原理，这种建造方式大大减少了施工人数，提升了建造速度，同时还可减少建造过程中产生的建筑垃圾。在北京冬奥会场馆国家高山滑雪中心的建设过程中，设计人员利用传统吊脚楼的“吊脚”架空建造方式，在不破坏山体地形的基础上还为当地珍稀的动植物保留了活动和生长空间，也大大降低了施工难度。

填入画横线部分最恰当的一项是：

A.在中国建筑史中有着不容忽视的地位与作用

B.直到今天依然为建筑建设提供着灵感与启示

C.这种发展在如今的现代建筑中依旧在缓慢延续

D.古人的营造智慧在这些建筑中体现得淋漓尽致

56. 文明永续发展，既需要薪火相传、代代守护，也需要与时俱进、推陈出新。优秀传统文化是一个国家、一个民族传承和发展的根本，是在世界文化激荡中站稳脚跟的根基。抛弃传统、丢掉根本，就等于割断了自己的精神命脉。只有在赓续传承中弘扬光大，才能为本国探索现代化道路筑牢文化根基、提供精神力量。传承传统文化绝不是简单复古，也不是盲目排外，而是要充分挖掘各国历史

上岸村·不辜负每一次相遇

上岸村·不辜负每一次相遇

文化的时代价值，推动各国优秀传统文化在现代化进程中实现创造性转化、创新性发展，把跨越时空、超越国界、富有永恒魅力、具有当代价值的文化精神弘扬起来，让一切文明的精华造福当今、造福人类。

这段文字意在说明：

A.文明永续发展需坚持守正创新

B.应处理好传承与创新的辩证关系

C.尊重文明多样性让文明百花齐放

D.需铸牢创新意识构建精神文明高地

57．胶质母细胞瘤是一种侵袭性脑肿瘤，目前缺乏有效的疗法，在一定程度上是由于肿瘤能够抑制或逃避人体的天然抗癌免疫反应所导致的。使用检查点抑制剂的免疫治疗可重新激活免疫系统对抗癌症，但肿瘤内必须存在被称为杀伤性T细胞的特异性免疫细胞。然而，脑癌患者脑内的血管功能失调，会形成屏障，阻止杀伤性T细胞到达肿瘤。因此，这种免疫疗法对多种形式的癌症有效，但对脑癌无效。研究人员开发的新方法能帮助杀伤性T细胞到达肿瘤并对抗癌症细胞。在动物模型中，这种治疗延长了动物的生存期，在某些情况下可治愈这一疾病。

这段文字**没有**解释：

A.新免疫疗法系统治疗脑肿瘤有何优势

B.侵袭性脑肿瘤或能被治愈的相关依据

C.新疗法缘何能使杀伤性T细胞到达肿瘤

D.胶质母细胞瘤目前为何缺乏有效的疗法

58．推进转型发展，需要有“壮士断腕”的勇气，敢于与粗放式的、注重数量和短期效应的发展定式告别，敢于与拼资源、拼环境、拼消耗的传统方式决裂。要以稳中求进来推动转型发展，统筹稳增长、调结构、促改革，保持经济增速和就业的基本稳定；要以新中求进来实现转型发展，通过创新驱动催生新结构、新方式、新改革、新项目，激活经济增长的新动力；要以好中求进来体现转型发展，追求有质量、有效益、惠民生、可持续的经济增长，打基础、利长远，推动经济社会又好又快发展。落实到选人用人方面，要充分发挥绩效考核的“指挥棒”效应，对干出实绩的干部加以重用，破除以生产总值论英雄的“紧箍咒”，让他们轻装上阵、心无旁骛地推进转型创新发展。

最适合做这段文字标题的是：

A.调整“指挥棒”，推动经济社会可持续发展

B.舞活“指挥棒”，引领转型发展的生动实践

C.用好“指挥棒”，保障转型发展的强力推进

D.握准“指挥棒”，形成转型发展的高度自觉

59．①病毒体型微小，但它们在生态系统中无处不在

②一直以来，病毒似乎处于食物链之外，只顾感染并蚕食生物，而不会被生物当成食物，这看上去不合常理

③据研究估算，世界上病毒的数目比宇宙中的恒星总数还要多 1 亿倍，总重量则与 250 亿人的体重相当

④因此，生物学家一直在寻找噬食病毒的生物

⑤几乎所有的物种，都会被病毒感染

⑥但有趣的是，很长一段时间内，科学家从未找到一种以病毒为食的生物

将以上 6 个句子重新排列，语序正确的是：

A. ⑤①③②⑥④　　B. ①③⑤⑥②④

C. ⑤①⑥③②④　　D. ①⑥④③⑤②

60．①记载古代历史的竹简木牍，历经千年沧桑的秦砖汉瓦，精美绝伦的敦煌壁画，工艺精湛的陶瓷器皿……

②文物承载灿烂文明，传承历史文化，维系民族精神，是老祖宗留给我们的宝贵遗产，是加强社会主义精神文明建设的深厚滋养

③一件件珍贵的文物，既是见证历史的文化遗存，也是滋养精神血脉的宝贵财富

④我们应发挥好博物馆的“大学校”作用，让文物更好融入日常生活

⑤激起思接千载的心绪，触摸博大精深的文明，从而更加坚定文化自信

⑥与文物“对话”，不仅能丰富人们的精神文化生活，还能让我们感受到弦歌不辍的传承

将以上 6 个句子重新排序，语序正确的一项是：

A. ⑥⑤①④②③　　B. ②⑥⑤④③①

C. ②①③⑥⑤④　　D. ③②①⑥④⑤

※※※第三部分结束，请继续做第四部分！※※※

上岸村·不辜负每一次相遇

上岸村·不辜负每一次相遇

第四部分　数量关系

61. 某医院现有两箱同样数量的医用口罩，准备向两支医疗队分别进行派发，分给 A 队每人 8 只缺 4 只，分给 B 队每人 9 只剩 5 只，A 医疗队比 B 医疗队多 3 人，那么每个箱子中有口罩（　）只。

A. 140　　B. 160

C. 100　　D. 120

62. 某大学期末考试结束后统计，英语、数学均不及格的人数占全班的 18%，英语及格的人数比数学及格的人数多 12 人，且数学及格的人数占全班人数的 50%。已知全班人数不超过 70 人，那么英语及格的人中数学也及格的有（　）人。

A. 25　　B. 23

C. 21　　D. 18

63. 甲、乙、丙 3 家食品工厂承接一个月饼订单。甲工厂单独做完需要 20 天完成，乙工厂单独做完需要 25 天完成。起初，甲、乙工厂一起做月饼 10 天，后因设备检修均停工 7 天，再开工时 3 家工厂做月饼，再过 1 天就可全部做完。那么，在不考虑设备检修的情况下，若由丙单独完成该订单，共需用多少天？

A. 40　　B. 60

C. 80　　D. 100

64. 某单位打算在若干天内整理一批文件，按计划天数整理，若每天整理 200 份，则期限到时仍有 100 份文件未整理；若每天整理 230 份，最后一天只要整理 30 份。那么，这批文件共有（　）份。

A. 1300　　B. 1400

C. 1800　　D. 2100

65. 某水果店打算对草莓进行打折销售，如果打 8 折，利润会减少 50%；如果打 7 折销售，每斤利润会减少 15 元。如果按原价销售，每斤草莓的利润是（　）元。

A. 5　　B. 12

C. 18　　D. 20

66. 一辆汽车以 54 千米/小时的速度从 A 地出发匀速向 B 地方向行驶。半个小时后，B 地有甲、乙二人以相同速度骑自行车背向而行。甲骑行了 6 千米后与汽车相遇，此后汽车又行驶了 20 分钟追上了乙，求甲从 B 地骑行到 A 地需要多少时间？

A. 150 分钟　　B. 160 分钟

C. 170 分钟　　D. 180 分钟

67. 某车间接到一批零件的生产订单，以 60 件/天的效率生产 4 天后，发现会比预计工期晚 6 天完成任务，同时，单位临时从该车间抽调走三分之一的工人支援其他项目，为了保证按时完工，该车间安排剩余工人每天加班提效。提效后，每名工人每天的工作效率提高了一倍，最终提前 4 天完成订单。问：这批零件一共有多少件？

A. 2640　　B. 1980

C. 1680　　D. 1440

68. 某科室有三位科员，甲科员与乙科员的年龄之和是丙科员年龄的 4.4 倍，乙科员年龄为丙科员年龄的 1.8 倍，若 4 年后甲科员年龄变为乙科员年龄的的 1.4 倍，则（　）年后乙科员年龄变为丙科员年龄 1.5 倍。

A. 14　　B. 12

C. 6　　D. 10

69. 某一女装品牌请三家代工厂为其加工生产服装，A、B、C 三厂加工生产占比分别为 30%、45%、25%。三家生产的合格率分别为 85%、90%、80%。若已知从该女装品牌购买到合格品，则它由 C 厂加工的可能的概率为（　）。

A. $\frac{10}{43}$　　B. $\frac{7}{50}$

C. $\frac{43}{50}$　　D. $\frac{1}{5}$

70. 甲、乙、丙三人从环形跑道的同一点同时出发，沿着环形跑道同一方向匀速跑步，甲的速度最快，乙次之，丙最慢。当甲跑完第 7 圈时，刚好第一次追上丙，此时乙在丙前方 100 米处。如果环形跑道一圈的周长是 200 米，则乙第一次追上丙时跑了多少圈？

A. 12　　B. 13

C. 14　　D. 15

71. 某单位举行环保知识竞赛，决赛共有 9 人参加，他们的成绩从高到低恰好构成等差数列，且第一名比最后一名多 8 分，前两名的总成绩为 185 分，问 9 个人的总成绩是多少分？

A. 794　　B. 801

C. 810　　D. 830

72. 甲、乙两花店某天共购进玫瑰花 520 朵。甲花店购进的玫瑰花中有 52% 是红玫瑰，其余是白玫瑰；乙花店购进的玫瑰花中有 $\frac{5}{8}$ 是红玫瑰，其余是白玫瑰。问甲、乙两花店该天至少共购进多少朵白玫瑰？

A. 237　　B. 224

上岸村·不辜负每一次相遇

上岸村·不辜负每一次相遇

C. 216　　D. 207

73. 某台晚会的导演要从甲、乙、丙、丁、戊 5 个语言类节目中选出 4 个，若选甲，则甲不能在第一个表演；若同时选择丙和丁，它们的表演顺序必须相邻。问该晚会语言类节目的表演顺序一共有多少种？

A. 60　　B. 64

C. 68　　D. 72

74. 将各位数字之和为 8 的整数为“幸运数”，如 116、1232 等均为“幸运数”，那么从三位数中任选一个，恰好是“幸运数”的概率为：

A. $\frac{1}{25}$　　B. $\frac{4}{25}$

C. $\frac{1}{5}$　　D. $\frac{6}{25}$

75. 如图，△ABC 是边长为 6 厘米的等边三角形，被一平行于 BC 的矩形所截，AB 被截成三等份，则图中阴影部分的面积为多少平方厘米？

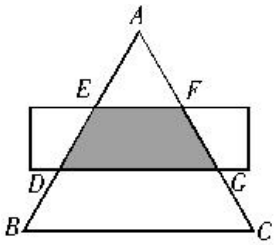

A. 4　　B. $2\sqrt{3}$

C. $3\sqrt{3}$　　D. $4\sqrt{3}$

※※※第四部分结束，请继续做第五部分！※※※

第五部分　判断推理

76. 从所给四个选项中，选择最合适的一个填入问号处，使之呈现一定规律性。（　）

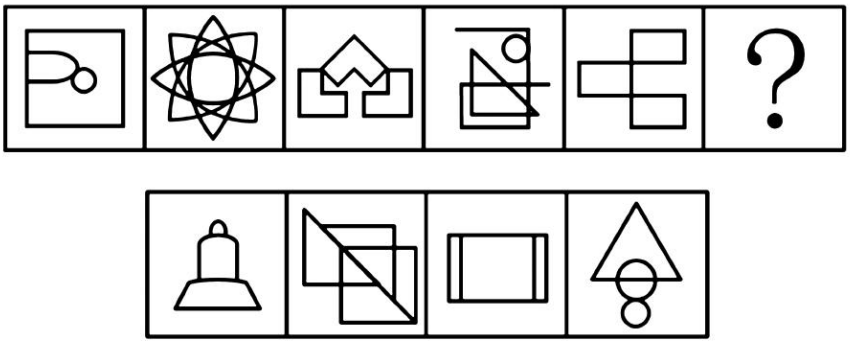

A　B　C　D

77. 从所给四个选项中，选择最合适的一个填入问号处，使之呈现一定规律性。（　）

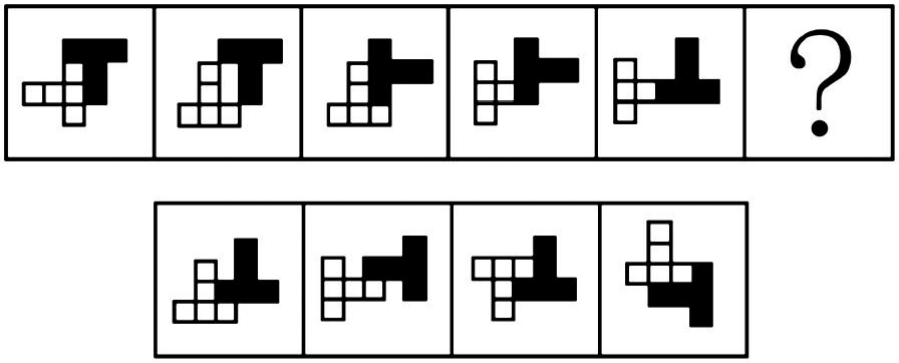

A　B　C　D

78. 把下面的六个图形分为两类，使每一类图形都有各自的共同特征或规律，分类正确的一项是：

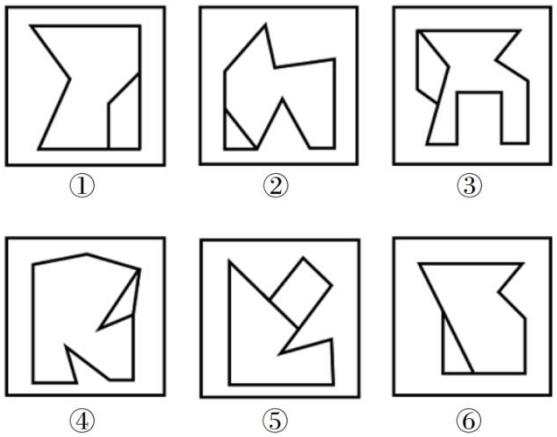

A. ①④⑤，②③⑥

B. ①③④，②⑤⑥

上岸村·不辜负每一次相遇

上岸村·不辜负每一次相遇

C.①⑤⑥，②③④

D.①②⑥，③④⑤

79.把下面的六个图形分为两类，使每一类图形都有各自的共同特征或规律，分类正确的一项是（　）

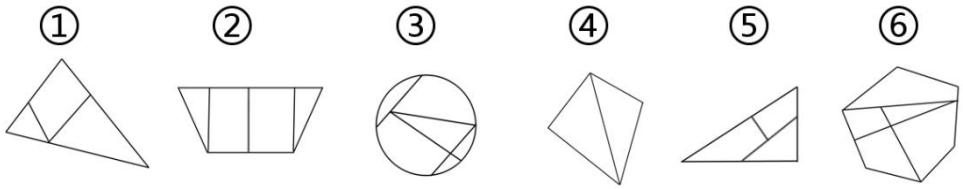

A.①④⑤，②③⑥

B.①⑤⑥，②③④

C.①②④，③⑤⑥

D.①③⑥，②④⑤

80.下图为给定的多面体及其外表面展开图，问字母 A、B、C、D 和数字 1、2、3、4 代表的棱的对应关系为：

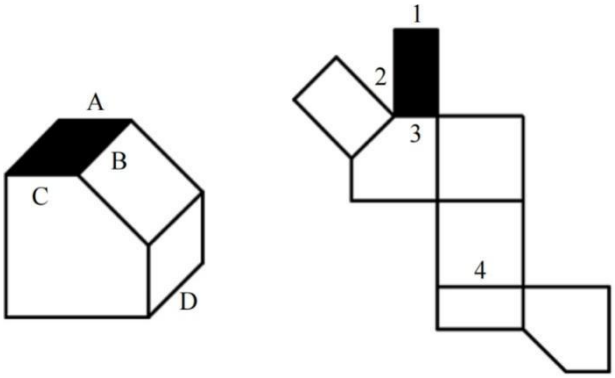

A.1-C，2-D，3-A，4-B　　B.1-A，2-B，3-C，4-D

C.1-C，2-B，3-A，4-D　　D.1-A，2-D，3-C，4-B

81.痕迹检验是运用刑事科学技术手段，发现、提取、分析、检验鉴定犯罪分子遗留在案件现场上的各种痕迹物证，为侦查破案提供线索和证据。

根据上述定义，下列符合痕迹检验的是：

A.警察对一定范围的被拘捕人犯进行指纹捺印登记，并将登记卡片编号储存

B.技术人员将犯罪嫌疑人留在案发现场的无色汗液手印用化学方法染色显现

C.警犬通过超强的嗅觉在距离案发现场 500 米的垃圾回收站找到了作案工具

D.有人举报小高偷电瓶车，警官排查小高的行动轨迹后发现他没有作案时间

82.囤积强迫症是指在不停添置新东西的同时，人们还不舍得扔掉他们之前囤积的没有用的东西，有人甚至因此无法正常生活。

根据上述定义，下列符合囤积强迫症的是：

A.小张非常不爱清理家中的物品，导致家里添置的新沙发都不能并排放到客厅

B.购物狂小王经常积攒物品，连使用过的创可贴都舍不得丢掉，认为这是回忆

C.小雨和前任分手后就开始收拾东西清理记忆，扔掉了两人一起的照片和礼物

D.小龙非常喜欢看直播，总在直播间购买自己常用的化妆品和各种新款的衣服

83.妨害安全驾驶罪包括以下内容：第一款，对行驶中的公共交通工具的驾驶人员使用暴力或者抢控驾驶操纵装置，干扰公共交通工具正常行驶，危及公共安全的行为；第二款，驾驶人员在行驶的公共交通工具上擅离职守，与他人互殴或者殴打他人，危及公共安全的，依照前款的规定处罚。

根据上述定义，下列不符合妨害安全驾驶罪的是：

A.刘某乘坐公交车出行时，看到司机穿着背心，感觉非常不满，便徒手抢夺公交车方向盘

B.金某联系了网约车，乘车过程中发现驾驶员董某以前与自己发生过纠纷，双方当即扭打起来

C.因肖某遮住出租车内摄像头，司机宋某不顾车辆还在行驶，扬起手中的手机砸向了肖某

D.小李因张某的猫在车上发出噪声而与其争吵，司机刘某劝说无果，当即要求他们都下车

84.僵尸网络是指采用一种或多种传播手段，将大量主机感染僵尸程序病毒，从而在控制者和被感染主机之间形成一个可一对多控制的网络。

根据上述定义，下列可能出现僵尸网络情况的是：

A.某台电脑感染病毒以后邮件系统变慢，电脑自动改写本地及网络硬盘上的某些文件，并导致整个网络系统崩溃

B.某网站长期呈僵化状态，当网民点开网页内的栏目时，不是显示“内容正在建设”，就是“无法打开该页面”

C.黑客通过病毒，利用系统漏洞进入某用户的系统并隐藏，悄悄拷贝了该用户的微信聊天信息，并在互联网公布

D.某公司电脑感染病毒程序，所有的办公电脑同时对某目标网站进行分布式拒绝服务攻击并发送大量的垃圾邮件

上岸村·不辜负每一次相遇

上岸村·不辜负每一次相遇

85.销售物流成本是指产品空间位移（包括静止）过程中所耗费的各种资源的货币表现，是物品在实物运动过程中，如包装、装卸、搬运、运输、储存、流通加工、物流信息等各个环节所支出的人力、财力、物力的总和。

根据上述定义，下列选项中没有发生销售物流成本的是：

A.为缩短送货时间，某公司增加了运货的车辆，为此多支出了 30 万运费

B.某手机公司销量比去年提高一倍，为方便发货在物流园租用了专属储货仓库

C.某医用口罩公司为研发新型口罩，额外支出 100 万作为小组的研发资金

D.某电器产业为了减少储存产品的装卸时间，花 20 万更新了装卸搬运设备

86.审美趣味时代性是个体、群体审美趣味、爱好的时代特征。人的审美活动、审美需求受特定时代的社会实践、生产力发展水平、社会意识形态和审美对象、艺术发展的影响和制约，形成各自不同的审美理想和审美趣味，并在其审美理想的指导、规范和审美趣味的指引下进行美的鉴赏和创造，其艺术风格和审美自然会表现出时代的特征。

根据上述定义，下列体现了审美趣味时代性的是：

A.中国传统绘画作品基本上都是审“美”的，而西方绘画关于“痛”的作品非常多

B.有些初中生对动画片《变形金刚》十分迷恋，而有些高中生却喜欢读《骆驼祥子》

C.朱自清这样的名师给予学生的影响作用，不单单是文学而且包含着道德和人格

D.八十年代城乡家家户户室内都陈设着用来存储粮食的黑色瓷瓮，来象征财富

87.体外诊断是指在人体之外，通过对人体样本（血液、体液、组织等）进行检测而获取临床诊断信息，进而判断疾病或机体功能的产品和服务。

根据上述定义，下列不属于体外诊断的是：

A.医生通过检测患者血清从而对人体进行免疫分析，检查是否存在自身免疫缺陷病

B.医生将结核菌素诊断试剂注射入人体，曾感染过结核杆菌的人，会产生致敏细胞

C.医护人员采集了人们呼吸道中的痰液标本，通过核酸试剂来检测是否携带新冠病毒

D.病人肺部有肿瘤，医生为其实施了开胸手术，切除肿瘤并在术中对肿瘤进行活检

88.意定监护：是指具有完全民事行为能力的成年人可以与其近亲属、其他愿意担任监护人的个人或者组织事先协商，以书面形式确定自己的监护人。协商确定的监护人在该成年人丧失或者部分丧失民事行为能力时，履行监护职责。

根据上述定义，下列情况最有可能属于意定监护的是：

A.患有阿尔茨海默症的独居老人张某，日常的生活起居由其所在的社区居委会专门照料

B.刚上初中的小李，因遭遇意外而全身瘫痪，他的奶奶每天坚持给他喂饭，帮他翻身擦洗

C.高老太与其专职保姆薛某签订协议，由薛某照顾她的晚年生活，为她安葬，她自愿将去世后的合法财产都遗赠给薛某

D.刚确诊“渐冻症”的方先生，为了避免在患病后期丧失生存能力，与其好友签订协议，由其好友在后期进行监护

89.双齐格：是一组句子的句首、句尾或句中应用雷同词语的格，由于至少有两句或两处相同的词语，故名双齐格。

根据上述定义，下列不属于双齐格的是：

A.良禽相木栖，贤臣择主侍

B.因地制宜，因人而异

C.狗不嫌家贫，儿不嫌母丑

D.静以修身，俭以养德

90.添附是指民事主体把不同所有人的财产或劳动成果合并在一起，从而形成另一种新形态的财产。添附主要有混合、附合、加工三种形式。

根据上述定义，下列不属于添附的是：

A.承租人甲在租借来的楼房平台上加盖了一层

B.大风将甲在麦场上晾晒的麦子吹到乙的麦堆里

C.甲因疏忽将自己家的沙土倒在了乙的沙土堆里

D.未经乙同意，甲私自用乙的油漆给自己的汽车补漆

91.金属配件：汽车配件

A.滋补药材：补血药材　　B.独任审判：线上审判

C.黑胶唱片：钢丝唱片　　D.静态风险：动态风险

92.过河：拆桥

A.破釜：沉舟　　B.鸟尽：弓藏

C.刻舟：求剑　　D.卸磨：杀驴

93.剧作家：演员：剧本

A.演奏家：歌手：乐谱　　B.美食家：厨师：菜谱

上岸村·不辜负每一次相遇

上岸村·不辜负每一次相遇

C.设计师：工人：图纸　　D.指导员：士兵：命令

94.瓷器：收藏：巧夺天工

A.木雕：装饰：栩栩如生　　B.典籍：阅读：长篇累牍

C.园林：观赏：错落有致　　D.古琴：聆听：宛转悠扬

95.肉食动物　对于　（　）　相当于　（　）　对于　违法行为

A.野生动物　　犯罪行为　　B.哺乳动物　　民事行为

C.杂食动物　　合法行为　　D.陆生动物　　道德行为

96.位于英格兰威尔特郡索尔兹伯里平原的英国巨石阵由巨大的石头组成，每块约重 50 吨，约建于公元前 4000 年。如果站在巨石阵的中央观察，那么第 93 号石头正好指向立夏和立秋这两天日落的位置。于是科学家推测巨石阵大概是远古时代人们为观测天象所建造的，它很可能就是一座非常非常古老的“天文台”。

以下哪项如果为真，最能削弱科学家的推测？

A.十八世纪中期，一些修补人员对这座史前纪念碑进行了修补和加固，对巨石的位置进行了重新摆放

B.古代欧洲的天文台大都由既轻便又很容易从当地得到的木材和泥土来建造

C.考古学家在巨石阵挖掘发现 63 位死亡的骨骼，以及一个彰显高等社会地位的权杖头

D.通过巨石阵石环和土环的结构关系，可以精确了解太阳和月亮的 12 个方位

97.很多人认为性格内向、心思重、想法多的人会更孤独、社交意愿低。某研究机构近日指出，睡眠不足会让人觉得更孤独，社交意愿减少，甚至相关的大脑神经通路也会发生变化。

以下哪项如果为真，最能质疑研究者的结论？

A.通过实验显示有些睡眠不足的参与者是愿意与人沟通的

B.性格内敛的人不喜欢社交同时他们由于心思较重很容易失眠睡不好觉

C.有睡眠问题的群体患抑郁症的风险高于睡眠正常群体，但患焦虑症的风险和睡眠正常群体持平

D.小鼠每天睡眠减少两小时，连续三个星期，发现主管情绪的前额叶和主管记忆的海马体都没有变化

98.响尾蛇在在捕食未成年松鼠时，保护松鼠的成年松鼠会把尾巴竖起来摇来摇去，以此来骚扰响尾蛇。新的研究结果表明，当骚扰响尾蛇时，松鼠的尾巴

会变热。由于响尾蛇有一种可以探测到热量的红外感应器官，松鼠的尾巴温度升高可能在击退响尾蛇的过程中起到了一定的作用。

以下哪项如果为真，最能削弱上述结论？

A.在遇到没有红外感应器官的天敌时，松鼠的尾巴也会摇来摇去

B.响尾蛇并不是松鼠的唯一天敌，它的骚扰行为是一种防御机制

C.面对尾巴变热的松鼠和没有变热的松鼠，响尾蛇的反应并无区别

D.成年松鼠体内有一种血液蛋白质能够抑制蛇毒，使它们蛇口逃生

99.在一项实验中，两组学生学习如何制作尼安德特人制造的石器工具。第一组有老师示范和详细的语言说明，而第二组只有老师示范，没有语言说明。两组学生在学习工具制作技巧的速度和熟练程度上都没有显著差异。这表明尼安德特人即使没有语言也能制造出复杂的工具。

以下哪项如果为真，最能削弱上述结论？

A.第一组学生被允许互相讨论制作技术，第二组的学生则不被允许

B.只有沉默演示而没有语言说明会迫使学生学习时更加集中注意力

C.学生学习制作的工具要比大多数尼安德特人制造的工具简单得多

D.遗传分析发现尼安德特人的语言基因序列与现代人的序列相匹配

100.考古研究院的考古人员对蓝田县新街遗址进行了抢救性考古发掘。在发掘过程中，他们发现仰韶文化晚期烧结砖残块 5 件，未曾烧过的土坯砖残块 1 件。其中有 3 件出自该文化时期的窖穴中，另 2 件出自仰韶文化晚期文化层中。土坯砖残块则出自仰韶文化晚期窖穴中。据专家介绍，他们发现仰韶文化晚期的那件土坯砖，边缘整齐，根本看不到切割痕迹，因此考古专家推测应当是采用木质模具而成型的。而其他 5 块仰韶文化的烧结砖块，经检测其当时的烧成温度在 850-900℃，由此可以推测，当时做砖是由模具做成土坯，之后高温烧制而成。

以下哪项如果为真，不能削弱上述论证的是？（　）

A.仰韶文化晚期，由模具制成的土坯在高温烧制后会变形

B.有研究发现，当时的烧制技术，窑炉最高温度只能达到 800℃

C.没有采用模具而成型的土坯砖，其边缘不整齐，并有切割痕迹

D.模拟用模具烧制土坯砖时，高温下的土坯边缘会发生变形

101.某市就业群体中有些高科技人才拥有专业技术职称，该市所有拥有专业技术职称的人都获得过政府津贴，而该市所有从事旅游行业的从业人员都没有获得过政府津贴。

如果以上陈述为真，则以下哪项也一定为真：（　）

A.所有高科技人才都获得过政府津贴

B.有些高科技人才没有获得过政府津贴

上岸村·不辜负每一次相遇

上岸村·不辜负每一次相遇

C.有些高科技人才不是从事旅游行业的

D.有些拥有专业技术职称的是从事旅游行业的

102.某县级重点高中，高二三班有一名同学得了甲流。张校长让班主任快速调查这名感染甲流的同学是谁，班主任及时询问了班里四位同学，他们的回答如下：

王明说：如果张康感染了甲流，那么李爽也感染了甲流。

李爽说：贾旭明这两天生龙活虎的肯定没生病。

张康说：自己这几天不舒服确实感染了甲流，而同桌李爽却一点事儿都没有肯定没有感染甲流。

贾旭明说：若李爽没有感染甲流，则贾旭明感染了甲流。后得知四人中有一人说假话，问高二三班谁得了甲流？（　）

A.王明

B.张康

C.李爽

D.贾旭明

103.小周、小吴、小郑、小王、小李 5 人是某律所的律师，某日他们被安排到甲、乙和丙 3 个小区进行法律援助活动。每个小区安排 1 至 2 人，每人只在一个小区服务。已知：

①安排在甲小区的律师最少

②若小郑、小王中至少有 1 人安排在甲小区，则小吴安排在丙小区

③若小周、小郑、小王中至少有 1 人安排在乙小区，则在丙小区开展法律援助务的只有小李

由此可以推出：（　）

A.小吴安排在甲小区

B.小王、小李安排在乙小区

C.小吴、小郑安排在丙小区

D.小郑、小王安排在丙小区

104.1993 年，某沿海城市的青年男子甲型肝炎发病率明显高于往年。除此之外，当年该地青年男子因病致死的比率也明显高于往年。由此可推断，1993 年该市青年男子因病致死比率上升的根本原因是甲型肝炎。

以下哪项如果为真，最能削弱上述结论？（　）

A.该市的青年男子普遍都处于长期精神紧张的亚健康状态

B.1993 年，被称为“世界上最致命病毒”的马尔堡病毒正在该市爆发

C.1993 年，该市 45～55 岁中年男子甲肝发病率是青年男子的数倍

D.截至 2023 年，该市青年男子甲肝发病率与因病致死率同步变动

105.原蕨苷、蕨内酰胺、苯草酸、黄碱醇类化合物等物质均属于致癌物。其中，原蕨苷的致癌性最大，是遗传毒性致癌物，水解后会产生二烯酮类化合物，可以改变人体的 DNA，产生强致癌作用。因此，部分养生爱好者认为吃蕨菜会罹患癌症。

以下哪项如果为真，最能削弱上述结论？（　）

A.原蕨苷可溶于水，蕨菜经过加热、焯水、浸泡之后，可降低原蕨苷的含量

B.蕨菜中的原蕨苷成分极少，连续 20 年每天都吃 3500 克蕨菜才有可能罹患癌症

C.蕨菜被誉为“山菜之王”，其爱好者众多且并不在意其会致癌的言论

D.目前蕨菜被列为 2B 类致癌物，已被证实会导致部分动物患恶性肿瘤

※※※第五部分结束，请继续做第六部分！※※※

上岸村·不辜负每一次相遇

上岸村·不辜负每一次相遇

第六部分　资料分析

一、根据以下资料，回答第 106～110 题。

2024 年上半年，我国软件与信息技术服务业总收入同比增长 12.3%，增速较 1～5 月份提高 0.5 个百分点。软件与信息技术服务业收入中，软件产品收入、信息技术服务收入、信息安全收入、嵌入式系统软件收入同比分别增长 11.8%、13.5%、12.7%和 7.2%。信息技术服务收入中，云计算、大数据服务收入 6820 亿元，同比增长 11.6%；集成电路设计收入 1985 亿元，同比增长 17.8%。

2024 年上半年，我国东部、中部、西部、东北地区完成软件与信息技术服务业总收入同比增速分别为 11.5%、16.2%、17.3%和 8.9%。

2024 年一季度及上半年我国软件与信息技术服务业收入（单位：亿元）

	时段	总收入	软件产品	信息技术服务	信息安全	嵌入式系统软件
全国	一季度	28652	7126	18765	492	2269
	上半年	65830	16540	43128	1135	5027
东部地区	一季度	23486	5890	15632	385	1579
	上半年	54215	13280	35760	892	4283
中部地区	一季度	1058	412	568	12	66
	上半年	3246	1205	1872	35	134
西部地区	一季度	3625	895	2486	68	176
	上半年	7598	1823	5145	153	477
东北地区	一季度	483	129	279	27	48
	上半年	1771	632	941	55	143

106. 2024 年二季度，我国中部地区软件与信息技术服务业总收入约是东北

上岸村·不辜负每一次相遇

地区的：

A.不到 2 倍

B.2～3 倍之间

C.3～4 倍之间

D.4 倍以上

107.2024 年上半年，我国东部地区信息技术服务收入在全国软件与信息技术服务业总收入中的占比在以下哪个范围内？

A.不到 50%

B.50%～60%之间

C.60%～70%之间

D.超过 70%

108.在全国 4 个地区中，2024 年二季度四类软件与信息技术服务业收入均高于一季度水平的有几个？

A.4

B.3

C.2

D.1

109.将我国 4 个地区按 2024 年二季度嵌入式系统软件收入环比增速从快到慢排序，下列正确的是：

A.东北地区>中部地区>西部地区>东部地区

B.东部地区>东北地区>西部地区>中部地区

C.中部地区>东北地区>西部地区>东部地区

D.东北地区>东部地区>西部地区>中部地区

110.能够从上述资料中推出的是：

A.2023 年上半年，我国东北地区软件与信息技术服务业月均收入不足 220 亿元

B.2024 年 6 月，我国软件与信息技术服务业总收入增速低于 12%

C.2024 年上半年，我国嵌入式系统软件收入同比增量大于信息安全收入同比增量

D.2024 年上半年，我国集成电路设计收入占信息技术服务收入比重低于上年同期

上岸村·不辜负每一次相遇

二、根据以下资料，回答第 111～115 题。

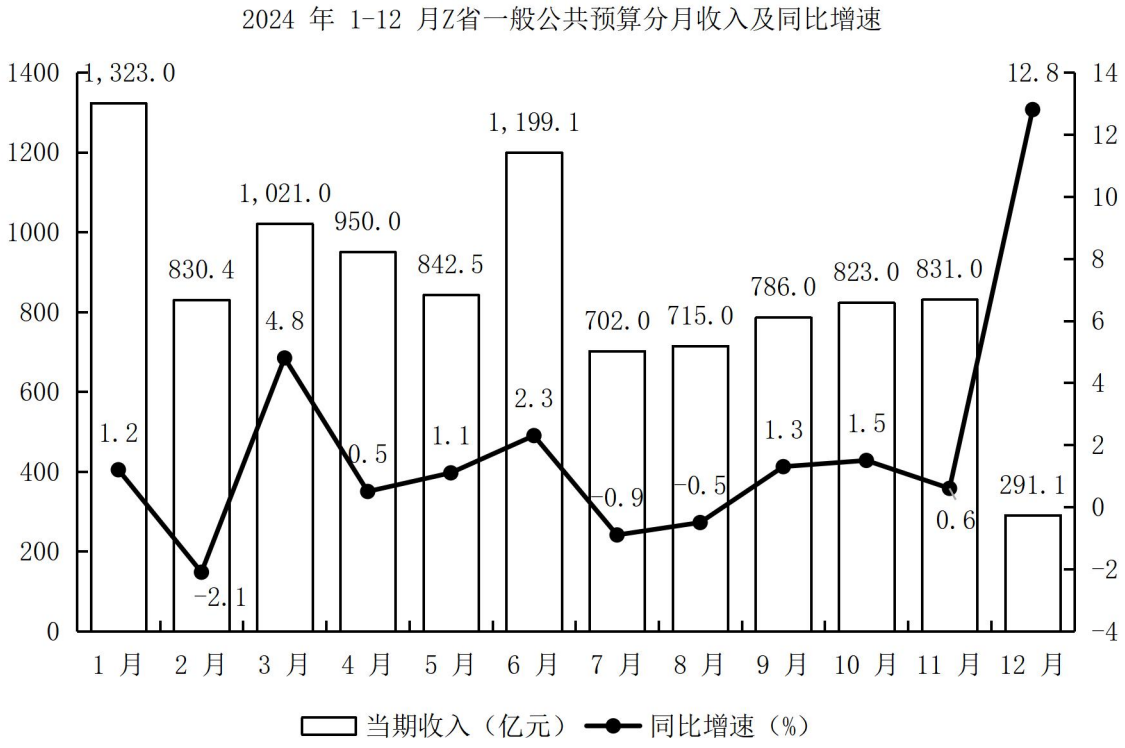

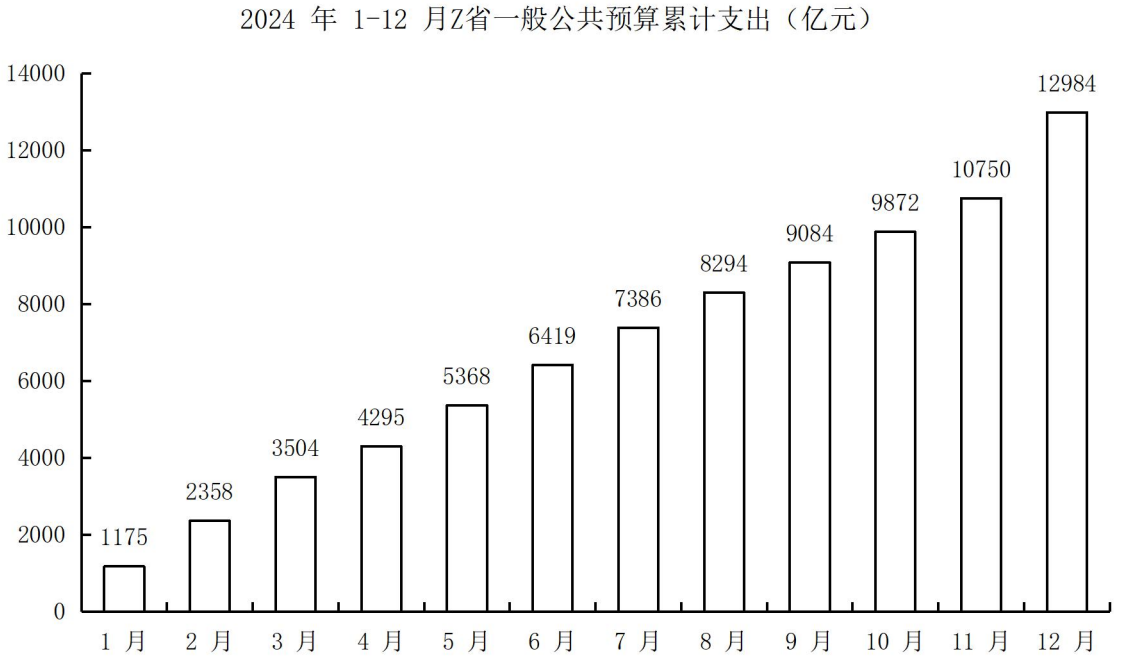

111. 2024 年 4 月，Z 省一般公共预算当期收入环比变化情况为？

A. 上升 30%以上

B. 上升不到 30%

C. 下降 10%以上

D. 下降不到 10%

上岸村·不辜负每一次相遇

112. 2024 年 Z 省一般公共预算支出最高的季度是？

A. 一季度

B. 二季度

C. 三季度

D. 四季度

113. 2024 年二季度，Z 省一般公共预算当期结余（当期收入-当期支出）为正的月份有几个？

A. 0 个

B. 1 个

C. 2 个

D. 3 个

114. 2024 年 Z 省一般公共预算累计收入首次突破 6000 亿元的月份是？

A. 6 月

B. 7 月

C. 8 月

D. 9 月

115. 以下柱状图反映了 2023 年哪一时间段内 Z 省一般公共预算当期收入环比增量的情况（横轴位置代表 0）？

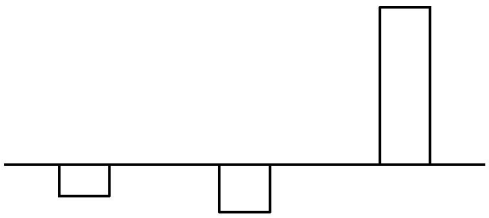

A. 2～4 月

B. 4～6 月

C. 7～9 月

D. 9～11 月

上岸村·不辜负每一次相遇

三、根据以下资料，回答第 116～120 题。

2014～2025 年全国用水量情况　　单位:亿立方米

年份	用水总量	农业生产	工业生产	生活	生态
2014	6095	3869	1356	767	103
2015	6103	3852	1335	793	123
2016	6040	3768	1308	821	143
2017	6043	3766	1277	838	162
2018	6016	3693	1262	860	201
2019	6021	3682	1217	872	250
2020	5813	3613	1030	863	307
2021	5920	3644	1050	909	317
2022	5943	3628	1042	925	348
2023	5961	3615	1038	942	366
2024	5978	3602	1035	958	383
2025	5995	3588	1032	975	400

116. 2019～2023 年，全国农业生产用水总量约为工业生产用水总量的多少倍？（　）

A. 2.8

B. 3.5

C. 4.2

D. 4.8

117. 以下各年中，全国生态用水量同比增速最快的是（　）。

A. 2020 年

B. 2021 年

C. 2022 年

D. 2023 年

118. 2019～2024 年，全国农业生产、工业生产、生活和生态四类用水中至少有三类用水量同比下降的年份有几个？（　）

A. 0

B. 1

C. 2

D. 3

119. 2025 年生态用水量占全国用水总量的比重相较 2014 年（ ）。

A. 高不到 4 个百分点

B. 高 4 个百分点以上

C. 低不到 4 个百分点

D. 低 4 个百分点以上

120. 以下折线图反映的是 2020～2023 年间，全国哪一类用水量同比增量的变化趋势？

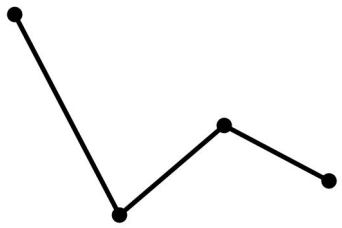

A. 生活用水

B. 生态用水

C. 农业生产用水

D. 工业生产用水

四、根据以下资料，回答第 121～125 题。

2024 年，全国软件和信息技术服务业规模以上企业达 4.1 万家，较上年增加 0.3 万家；完成软件业务收入 134245 亿元，同比增长 12.5%，增速较上年同期提高 1.3 个百分点。

2024 年，全国软件业利润总额 16823 亿元，同比增长 8.9%，增速较上年同期提升 2.2 个百分点。软件业务出口额 612.8 亿美元，同比增长 5.7%，增速较上年同期提升 1.9 个百分点。其中，软件外包服务出口额同比增长 11.3%。

2024 年，东部、中部、西部和东北地区分别完成软件业务收入 112358 亿元、7642 亿元、12895 亿元和 1350 亿元，分别同比增长 11.8%、18.2%、15.7%和 7.9%。软件业务收入居前 5 名的北京、广东、江苏、山东、浙江共完成收入 98762 亿元，占比较上年同期提高 1.8 个百分点。

2024 年，全国 15 个副省级中心城市实现软件业务收入 69847 亿元，同比增长 11.2%，增速较上年同期提高 0.8 个百分点；实现利润总额 9236 亿元，同比增长 5.6%，增速较上年同期回升 1.7 个百分点。

上岸村·不辜负每一次相遇

上岸村·不辜负每一次相遇

121. 2024 年，全国软件业务收入约比 2022 年增长了：

A. 25%

B. 29%

C. 35%

D. 41%

122. 2023 年，全国软件业利润总额同比增速比软件业务出口额同比增速：

A. 高 0.5 个百分点

B. 高 2.9 个百分点

C. 低 0.5 个百分点

D. 低 2.9 个百分点

123. 2024 年，中部地区软件业务收入同比增量约是东北地区的多少倍？

A. 8

B. 12

C. 14

D. 17

124. 2022～2024 年，全国 15 个副省级中心城市软件业务收入占全国软件业务收入的比重呈现何种变化趋势？

A. 持续上升

B. 持续下降

C. 先升后降

D. 先降后升

125. 以下信息中，能够从上述资料中推出的有几项？

①2023 年平均每个规模以上软件企业完成软件业务收入

②2023 年北京、广东、江苏、山东、浙江软件业务收入之和

③2024 年软件外包服务出口额占软件业务出口额的比重

A. 0

B. 1

C. 2

D. 3

※※※全部测验到此结束！※※※

参考答案

第一部分　政治理论

1.B　2.C　3.D　4.D　5.A

6.D　7.B　8.B　9.C　10.B

11.B　12.D　13.B　14.B　15.A

第二部分　常识判断

16.D　17.D　18.C　19.C　20.D

21.D　22.B　23.A　24.C　25.A

26.B　27.C　28.D　29.D　30.C

第三部分　言语理解与表达

31.B　32.A　33.C　34.C　35.D

36.D　37.B　38.D　39.B　40.B

41.B　42.B　43.B　44.C　45.A

46.C　47.A　48.D　49.D　50.D

51.C　52.A　53.A　54.A　55.B

56.A　57.C　58.C　59.B　60.C

第四部分　数量关系

61.A　62.C　63.D　64.D　65.D

66.C　67.A　68.B　69.A　70.B

71.B　72.C　73.B　74.A　75.C

第五部分　判断推理

76.D　77.C　78.B　79.C　80.C

81.B　82.B　83.D　84.D　85.C

86.D　87.B　88.D　89.A　90.B

91.B　92.D　93.C　94.B　95.C

96.A　97.B　98.C　99.C　100.C

101.C　102.C　103.D　104.B　105.B

第六部分　资料分析

106.A　107.B　108.A　109.D　110.C

上岸村·不辜负每一次相遇

上岸村·不辜负每一次相遇

111.D	112.D	113.C	114.A	115.B
116.B	117.A	118.B	119.B	120.B
121.A	122.B	123.B	124.B	125.C

上岸村 不辜負每一次相遇

公考教育界明星黑马

- ★ **11年**公考沉淀，只做高学历名师的优质课程，超过**370万名**“准人民公仆”加入了上岸村大家庭
- ★ 创始人|北京大学硕士
  18年129座城市公考授课，坚持长期主义，做良知教育
- ★ 高三严管基地班|名师大班面授+小班督学，解“小城市小班难有名师”之困，浓厚氛围激发学习自驱力
- ★ 私人督学VIP班|顶流名师线上授课，**10+年**教龄老师答疑，及时消除卡点；班主任1v1督学，备考更加科学
- ★ 坚持“真 · 体制内 & 公考学科带头人 & 北大、人大、北师大高学历师资”顶流匠心名师队伍，拒绝流水线和量产模板化教育

创新黑马 | 只用名师 | 私人督学 | 好课不贵 | 真诚 | 有效
高质走心 | 毫无保留 | 远离过度商业化

首选上岸村的理由

顶配师资
北大、北师大等名师矩阵

死磕教研
考官/阅卷人直授评分标准

严管督学
线上线下一站式上岸服务

真诚普惠
全网免费全套课程播放过亿

学员见证

177.3分	25广东省考笔试超高分
94.0分	24国考面试目前已知最高分
94.2分	24广东省考已知全省行测第一
92.0分	24上岸上海市考核心岗位
91.6分	23国考面试目前已知最高分
92.8分	23广东省考991人在上岸村上岸，包括全省第一

…… ……

上岸村，不辜负每一次相遇！

扫码下载“上岸村APP”

微信公众号

上岸村官网

官方小助手

扫码关注好课

VIP私人督学班（线上）

名师答疑无卡点，私人督学胜自律

高三严管式基地班(线下)

每3个基地班学员，就有1个上岸

阅卷官申论批改班

真正的申论阅卷官，非常明确的申论赋分标准
即学即用的申论学习方法，全程阅卷官团队纯手工批改